RE – 1041 'Ka.P' (कर्णाली प्रदेश)

SEE 2081 (2025)

विज्ञान तथा प्रविधि

समयः ३ घण्टा **पूर्णाङ्कः ७५**

दिइएका निर्देशनका आधारमा आफ्नै शैलीमा सिर्जनात्मक उत्तर दिनुहोस् ।

खण्ड 'क' (Section 'A')

बहुवैकल्पिक प्रश्नहरू (Multiple Choice Questions)

तलका प्रश्नहरूको ठिक विकल्प छानी उत्तरपुस्तिकामा लेख्नुहोस् । **10×1=10**

1. **(a)** तलका मध्ये कुनचाहिँ तत्जन्य एकाइ हो ?

(i) क्याण्डेला (ii) एम्पियर **(iii) न्युटन** (iv) मोल

(b) सिअर्चिनलाई इकाइनोडर्माटा फाइलममा राखिनुको कारण के हो ?

(i) शरीर, टाउको, छाती र पेटमा विभाजित भएकोले

(ii) ट्युव फिटको सहायताले चाल देखाउने भएकोले

(iii) शरीर टेपजस्तै पातलो, लामो र चेप्टो भएकोले

(iv) यिनीहरू ओसिलो माटो र पानीमा पाइने भएकोले

(c) रगतमा एक्कासी सेता रक्तकोषको कमि भएमा कुन रोग लाग्छ ?

(i) ल्युकोपेनिया (ii) हेमोफिलिया (iii) रक्तअल्पता (iv) ल्युकेमिया

(d) दिइएका जीवमा, झुसिलकिरा र फन्जाइको सम्बन्ध कस्तो हुन्छ ?

(i) स्याप्रोट्रोपिक (ii) परजीवि (iii) परभक्षी **(iv) सिम्वायोटिक**

(e) यदि चन्द्रमाको सतहमा तौल 5 N छ भने पृथ्वीको सतहमा उक्त वस्तुको तौल कति होला ?

(i) 5/6 N (ii) 5 N **(iii) 30 N** (iv) 50 N

(f) कुन प्रकारको लेन्सको बिचको भाग मोटो र छेउको भाग पातलो हुन्छ ?

(i) कन्केभ लेन्स **(ii) कन्भेक्स लेन्स**

(iii) प्लेनो कन्भेक्स लेन्स (iv) प्लेनो कन्केभ लेन्स

(g) कुन अवस्थामा समतल ब्रह्मण्डको परिकल्पना गर्न सकिन्छ ?

(i) औसत घनत्व चरम घनत्व भन्दा बढी भएको अवस्थामा

(ii) औसत घनत्व चरम घनत्व भन्दा कम भएको अवस्थामा गरी

(iii) औसत घनत्व र चरम घनत्व बराबर भएको अवस्थामा

(iv) औसत घनत्व र चरम घनत्व तुलना गर्न नसकिने अवस्थामा

(h) नाइट्रिक एसिड र सोडियम हाइड्रोअक्साइड बिच रासायनिक प्रतिक्रिया हुँदा तलकामध्ये के उत्पादन हुन्छ ?

(i) $NaNO_3 + H_2$ (ii) $NaCl + H_2O$ **(iii) $NaNO_3 + H_2O$** (iv) $NaNO_3 + O_2$

(i) कार्बोजिन भन्नाले के जनाउँछ ?

(i) कार्बन डाइअक्साइड र नाइट्रोजनको मिश्रण

(ii) कार्बन डाइअक्साइड र हाइड्रोजनको मिश्रण

(iii) कार्बन डाइअक्साइड र पानीको मिश्रण

(iv) कार्बन डाइअक्साइड र अक्सिजनको मिश्रण

(j) तल दिएका हाइड्रोकार्बनमध्ये अल्काइन अन्तरगत कुन यौगिक समूह पर्दछ ?

(A) H-C≡C-H (B) 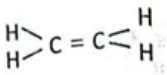 (C) 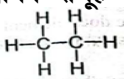 (D) 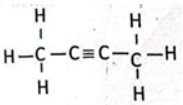

(i) A र C (ii) A र B **(iii) A र D** (iv) B र C

उत्तर कुञ्जिका (Answer Keys):

a. (iii)	b. (ii)	c. (i)	d. (iv)	e. (iii)	f. (ii)	g. (iii)	h. (iii)	i. (iv)	j. (iii)

खण्ड 'ख' (Section 'B')

तलका प्रश्नहरूको अति छोटो उत्तर लेख्नुहोस् । **9×1=9**

2. **(a)** अनलाइन रेप्युटेसन भनेको के हो ?

कुनै व्यक्ति वा संस्थाले अनलाइनमा वा भर्चुअल संसारमा देखाउने व्यवहारको प्रतिष्ठालाई अनलाइन रेप्युटेसन भनिन्छ ।

Yamnath Poudel 9848024521

(b) विशेषताका आधारमा यी दुईमध्ये कुन चाहिँ कम विकसित जनावर हो ?

विशेषताका आधारमा यी दुईमध्ये कम विकसित जनावर सार्क माछा हो ।

(c) शुद्ध रगत मुटुमा ल्याउने रक्तनलीको नाम के हो ?

शुद्ध रगत मुटुमा ल्याउने रक्तनलीको नाम पल्मोनरी शिरा हो ।

(d) चुम्बकीय क्षेत्र भनेको के हो ?

चुम्बकको असर हुने वरिपरिको क्षेत्रलाई चुम्बकीय क्षेत्र भनिन्छ ।

(e) बिग ब्याङ्ग सिद्धान्तलाई ब्रह्माण्डको उत्पत्ति सम्बन्धी सबैभन्दा विश्वसनीय मानिन्छ, किन ?

ब्रह्माण्डको उत्पत्तिका लागि बिग ब्याङ सिद्धान्तलाई सबैभन्दा भरपर्दो सिद्धान्त मानिन्छ किनभने यो सिद्धान्तलाई हबलको अध्ययन र डोप्लरको प्रभाव जस्तै रेड सिफ्ट जस्ता अनुसन्धान र अध्ययनहरूले थप प्रमाणित गरेका छन ।

(f) संयोजन प्रतिक्रियाको एउटा उदाहरण दिनुहोस ।

संयोजन प्रतिक्रियाको उदाहरण: $4Na + O_2 \rightarrow 2Na_2O$

(g) दिइएको रासायनिक समीकरणमा यौगिक 'X' को अणुसूत्र लेख्नुहोस् ।

$\mathbf{X + H_2SO_4 \rightarrow Na_2SO_4 + H_2O}$

दिइएको रासायनिक समीकरणमा यौगिक 'X' को अणुसूत्र NaOH हो ।

(h) कार्बनडाइअक्साइड ग्यासलाई पानीमा घोल्दा बन्ने अम्लको आणविक सूत्र लेख्नुहोस् ।

कार्बनडाइअक्साइड ग्यासलाई पानीमा घोल्दा बन्ने अम्लको आणविक सूत्र H_2CO_3 हो ।

(i) रिठामा कुन तत्व हुन्छ जसले रिठामा फिँज पैदा गर्दछ ?

रिठामा सेपोनिन तत्व हुन्छ जसले रिठामा फिँज पैदा गर्दछ ।

खण्ड 'ग' (Section 'C')

तलका प्रश्नहरूको छोटो उत्तर लेख्नुहोस् । **14×2=28**

3. आधारभूत एकाइको परिभाषा लेखी एउटा उदाहरण दिनुहोस् ।

अन्य एकाइमा निर्भर नरहने स्वतन्त्र अस्तित्व भएका एकाइलाई आधारभूत एकाइ भनिन्छ । जस्तै: मिटर, किलोग्राम, सेकेन्ड, आदि ।

4. उनिउँमा फूल फुल्दैन, साइकसमा फूल फुल्छ तर फल फल्दैन, केरामा फूल पनि फुल्छ र फल पनि फल्छ, तर यी सबै बिरूवाहरू एउटै डिभिजनमा पर्छन् । यी सबै वनस्पतिहरू एउटै डिभिजनमा पर्नुका दुई कारणहरू लेख्नुहोस् ।

(i) तिनीहरूमा स्पष्ट जराहरू, डाँठ र पातहरू हुन्छन् ।

(ii) तिनीहरूमा विकास भएका भास्कुलर तन्तुहरू (Vascular tissues) हुन्छन् ।

5. भाले मौरी र कर्मी मौरी बिच कुनै दुईओटा फरकहरू लेख्नुहोस् ।

भाले मौरी र कर्मी मौरी बिच निम्नानुसार फरक पाइन्छ ।

भाले मौरी (Drone bee)		कर्मी मौरी (Worker bee)	
(i)	भाले मौरी कर्मी मौरी भन्दा ठूलो हुन्छ ।	(i)	कर्मी मौरी भालेभन्दा सानो हुन्छ ।
(ii)	गर्भाधान नभएको फुलबाट भाले मौरी बन्छ ।	(ii)	गर्भाधान भएको फुलबाट कर्मी मौरी बन्छ ।
(iii)	भाले मौरीमा विष ग्रन्थि, मह सङ्कलन ग्रन्थि र खुट्टामा पराग थैली हुँदैन ।	(iii)	कर्मी मौरीमा विष ग्रन्थि, मह सङ्कलन ग्रन्थि र खुट्टामा फूलको रस जम्मा गर्नका लागि पोलेन बास्केट हुन्छ ।
(iv)	यसको मुख्य काम रानी मौरीलाई गर्भाधान गराउनु हो ।	(iv)	यसको मुख्य काम फूलको रस सङ्कलन गरी मह बनाउनु हो ।

6. मेन्डलले आफ्नो प्रयोगका लागि केराउको बिरुवालाई किन रोजे ? कुनै दुईओटा कारणहरू दिनुहुन् ।

मेन्डलले आफ्नो प्रयोगका लागि केराउको बिरुवालाई छनोट गर्नुका कारणहरू यसप्रकार छन् ।

(i) यसमा धेरै जोडा फरक गुणहरू (Contrasting characteristics) हुन्छन् ।

(ii) एकै पटकमा धेरै बिउहरू उत्पादन गर्न सकिन्छ जसबाट सजिलै धेरै सङ्ख्यामा नयाँ बिरूवा उत्पादन गर्न सकिन्छ ।

Yam Nath Poudel 9848024521

7. तल दुईप्रकारका कोष विभाजन प्रक्रिया देखाइएको छ ।

A कोष विभाजन → प्रजनन कोष → ग्यामेट निर्माण (प्रक्रिया P)

2n → सोमाटिक कोष → वृद्धि (प्रक्रिया Q)

(i) A ले कुन प्रकारको कोष विभाजन जनाउँछ ?

A ले ह्याप्लोइड (n) कोष विभाजन जनाउँछ ।

(ii) यी दुई प्रकारका कोष विभाजनको कुनै एक फरक लेख्नुहोस् ।

प्रक्रिया P ले मियोसिस कोष विभाजन जनाउँछ भने प्रक्रिया Q ले माइटोसिस कोष विभाजन जनाउँछ । यी दुई प्रकारका कोष विभाजनको फरक यसप्रकार छ ।

प्रक्रिया P (मियोसिस कोष विभाजन)	प्रक्रिया Q (माइटोसिस कोष विभाजन)
मियोसिस कोष विभाजनले जीवहरूको मैथुनिक प्रजननमा मुख्य भूमिका खेल्छ ।	माइटोसिस कोष विभाजनले शारीरिक वृद्धि विकासमा मुख्य भूमिका खेल्छ ।

8. पोलेको ठाउँमा उपचार गर्न प्रयोग हुने बिरूवाको नाम लेख्नुहोस् । उक्त बिरूवाको थप एक उपयोगिता पनि लेख्नुहोस् ।

पोलेको ठाउँमा उपचार गर्न प्रयोग हुने बिरूवाको घिउकुमारी हो । यसलाई हाडजोर्नी तथा छालासम्बन्धी रोग निको पार्न सेवन गरिन्छ ।

9. एउटा क्रिकेट बललाई पानीमा डुबाइ जोख्दा 2 N र त्यसले विस्थापित गरेको पानीको तौल 1 N छ भने

(i) बलको वास्तविक तौल कति हुन्छ ?

वास्तविक तौल = पानीमा वस्तुको तौल + विस्थापित गरेको पानीको तौल = 2N + 1N = 3 N

(ii) यो प्रयोग कुन सिद्धान्तमा आधारित छ ?

यो प्रयोग आर्किमिडिजको सिद्धान्तमा आधारित छ ।

10. धेरै चिसो स्थानमा रहेका पानीका पाइपहरू हिउँदमा फुट्छन् । यसका कुनै दुई कारणहरू लेख्नुहोस् ।

जाडोयाममा पानीको तापक्रम 4 डिग्री सेल्सियसबाट घट्दै 0 डिग्री सेल्सियससम्म पानीको आयतन क्रमशः बढ्दै जान्छ तर पाइपको तापक्रम घट्दै जाँदा आयतन पनि घट्दै जान्छ । फलस्वरूप पानीको आयतनभन्दा पाइपको आयतन कम हुँदा पानीको चापले गर्दा पानीका पाइपहरू हिउँदमा फुट्छन् ।

11. एउटा 500 g पिण्ड भएको पदार्थलाई 100°C बाट 226°C सम्म तताउन 5980 J ताप आवश्यक पर्छ भने उक्त पदार्थको विशिष्ट तापधारण क्षमता हिसाब गर्नुहोस् ।

यहाँ, पदार्थको पिण्ड (m) = 500g = 500/1000 kg = 0.5 kg

सुरूको तापक्रम (t_1) = 100^0 C

अन्तिम तापक्रम (t_2) = 226^0 C

तापक्रम परिवर्तन (dt) = $t_1 - t_2$ = 226 – 100 = 126^0 C

ताप (Q) = 5980 J

विशिष्ट तापधारण क्षमता (s) = ?

सूत्रानुसार, Q = msdt

$$s = \frac{Q}{m \times dt} \quad \text{or, } s = \frac{5980}{0.5 \times 126} = 94.92 \text{ J/kg}^0\text{C}$$

12. पृथ्वीको सतहबाट इन्द्रेणी सधैं अर्ध वृत्ताकार र एउटै मोटाइमा देखिनुका दुईओटा कारणहरू लेख्नुहोस् ।

पृथ्वीको सतहबाट इन्द्रेणी सधैं अर्ध वृत्ताकार र एउटै मोटाइमा देखिनुका दुईओटा कारणहरू यस प्रकार छन् ।

(i) इन्द्रेणी वृत्ताकार हुने भए तापनि क्षितिजले आधा भाग छेक्ने हुँदा पृथ्वीको सतहबाट इन्द्रेणी सधैं अर्ध वृत्ताकार देखिन्छ ।

(ii) सेतो प्रकाशको किरण पानीभित्र जाँदा त्यसमा भएका रङहरू एक आपसमा छुट्टिन्छन् र रङहरू निश्चित कोण बनाएर छुट्टिने हुँदा इन्द्रेणी सधै एउटै मोटाइमा देखिन्छ ।

13. एक विद्यार्थी ग्याँस जारमा रहेको ग्याँस नजिकै बलिरहेको सलाइको काँटी राख्दा उक्त काँटी निभ्यो । उक्त ग्याँसमा बलिरहेको म्याग्नेसियम रिवन घुसाउँदा हुने रासायनिक प्रतिक्रियाको सन्तुलित समीकरण लेख्नुहोस् ।

उक्त ग्याँस कार्बन डाइअक्साइड ग्याँस हो ।

बलिरहेको म्याग्नेसियम रिवनलाई कार्बन डाइअक्साइड भएको ग्याँस जारमा घुसाउँदा तेजिलो बल्छ र रासायनिक प्रतिक्रिया भई म्याग्नेसियम अक्साइड र कार्बन उत्पन्न हुन्छ जसको सन्तुलित समीकरण निम्नानुसार छ ।

$2Mg + CO_2 \rightarrow 2MgO + C$

Yam Nath Poudel 9848024521

14. खनिज र धाउमा कुनै दुईओटा फरक लेख्नुहोस् ।

खनिज र धाउमा निम्नानुसार फरक पाइन्छ ।

खनिज		धाउ	
(i)	प्राकृतिक रूपमा शुद्ध, ठोस र मणिभ आकारमा पाइने तत्त्व वा यौगिकलाई खनिज भनिन्छ ।	(i)	धातु प्राप्त गर्न सकिने खनिज पदार्थलाई धाउ भनिन्छ ।
(ii)	खनिजबाट थोरै वा धेरै मात्रामा धातु प्राप्त गर्न सकिन्छ ।	(ii)	धाउबाट धेरै मात्रामा धातु प्राप्त गर्न सकिन्छ ।
(iii)	सबै खनिज धाउ होइनन् ।	(iii)	सबै धाउ खनिज हुन् ।

15. कार्बन संख्या दुई भएको अल्कोहलको नाम र संरचना सूत्र लेख्नुहोस् ।

कार्बन संख्या दुई भएको अल्कोहलको नाम इथाइल अल्कोहल हो र यसको संरचनात्मक सूत्र निम्नानुसार छ ।

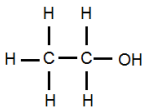

16. डिटरजेन्ट प्रयोग गर्नु वातावरणीय दृष्टिकोणले हानिकारक हुनुका कुनै दुईओटा कारणहरू लेख्नुहोस् ।

डिटरजेन्ट प्रयोग गर्नु वातावरणीय दृष्टिकोणले हानिकारक हुनुका कारणहरू यसप्रकार छन् ।

(i) यसको प्रयोगले पानीको स्रोतहरूलाई प्रदुषित गर्दछ र जलीय जीवलाई हानी पुऱ्याउँछ ।

(ii) डिटरजेन्ट जैविक विच्छेदन नहुने भएकाले माटोको उर्वराशक्ति घटाउँछ ।

खण्ड 'घ' (Section 'D')

तलका प्रश्नहरूको लामो उत्तर लेख्नुहोस् । **7×4=28**

17. डिजिटल प्रविधिका कुनै दुईओटा सकारात्मक र दुईओटा नकारात्मक प्रभावहरू लेख्नुहोस ।

डिजिटल प्रविधिका दुई सकारात्मक प्रभावहरू प्रकार छन ।

(i) यसले सञ्चार र डेटा स्थानान्तरण प्रणालीलाई छिटो र सजिलो बनाउँछ ।

(ii) अनलाइन कक्षाहरू लिने र अनलाइन व्यापार गर्ने उपयोगी हुन्छ ।

डिजिटल प्रविधिका दुई नकारात्मक प्रभावहरू प्रकार छन् ।

(i) यसले मानिसहरूलाई अस्वस्थ बनाउँछ र सामाजिकीकरणलाई कम गर्छ ।

(ii) साइबर र डिजिटल अपराधका पनि धेरै समस्याहरू हुन्छन् ।

18. कालो र सेतो कुकुरहरूबाट जन्मेका सन्तानहरू पहिलो र दोस्रो वंशमा देखापर्ने नतिजा मेण्डलले गरेको प्रयोग अनुसार फिनोटाइप र जिनोटाइप दुवै देखिने गरी चार्टमा देखाउनुहोस् र दोस्रो वंशको फिनोटाइप र जिनोटाइप अनुपात पनि लेख्नुहोस् ।

कालो र सेतो कुकुरहरूबाट जन्मेका सन्तानहरू पहिलो र दोस्रो वंशमा देखापर्ने नतिजा चार्टमा देखाइएको छ ।

दोस्रो वंशमा,

फिनोटाइपको अनुपात

कालो कुकुर : सेतो कुकुर = 3 : 1

जिनोटाइपको अनुपात

शुद्ध कालो : ठिमाहा कालो : शुद्ध सेतो = 1 : 2 : 1

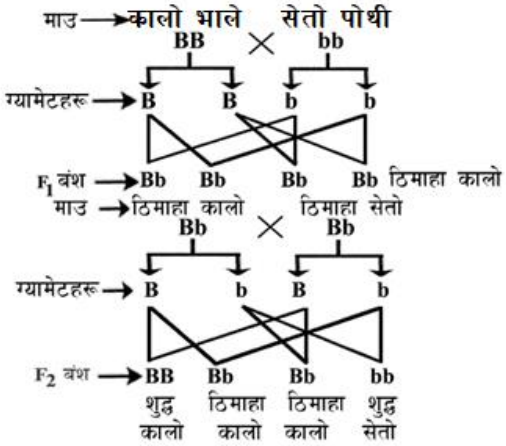

19. चार जना व्यक्तिको रगतको नमुना परीक्षण गर्दा निम्न नतिजा प्राप्त भयो ।

A - RBC को मात्रा न्यून **B – WBC को मात्रा बढी**

C - प्लेटलेट्सको मात्रा न्यून **D – चिनीको मात्रा बढी**

(i) कुन नमुना भएको व्यक्तिलाई चोटपटक लाग्दा धेरै रगत बग्छ ?

C - प्लेटलेट्सको मात्रा न्यून भएको व्यक्तिलाई चोटपटक लाग्दा धेरै रगत बग्छ ।

(ii) कुन नमुना भएको व्यक्ति एकैछिन हिंड्दा पनि थाक्छ ?

A - RBC को मात्रा न्यून भएको व्यक्ति एकैछिन हिंड्दा पनि थाक्छ ।

(iii) कुन नमुना भएको व्यक्तिलाई एन्टिवायोटिकको आवश्यकता पर्दछ ?

B – WBC को मात्रा बढी भएको व्यक्तिलाई एन्टिवायोटिकको आवश्यकता पर्दछ

(iv) कुन नमुना भएको व्यक्तिको मृगौलामा समस्या हुन सक्छ ?

D – चिनीको मात्रा बढी भएको व्यक्तिको मृगौलामा समस्या हुन सक्छ ।

Yam Nath Poudel 9848024524

20. न्युटनको गुरूत्वाकर्षण सम्बन्धी विश्वव्यापी नियम लेख्नुहोस । र $F = G\frac{m_1 \times m_2}{d^2}$ हुन्छ भनी उपयुक्त चित्रसहित प्रमाणित गर्नुहोस् ।

ब्रह्माण्डमा रहेका कुनै दुई वस्तुहरूबिच उत्पन्न हुने गुरूत्वाकर्षण बल ती वस्तुहरूका पिण्डहरूको गुणनफलसँग समानुपातिक र ती वस्तुहरूका केन्द्रबिचको दूरीको वर्गसँग व्युत्क्रमानुपातिक हुन्छ । यसलाई न्युटनको गुरूत्वाकर्षणसम्बन्धी विश्वव्यापी नियम भनिन्छ ।

न्युटनको गुरूत्वाकर्षणसम्बन्धी नियमअनुसार,

गुरूत्वाकर्षण बल वस्तुहरूका पिण्डको गुणनफलसँग समानुपातिक हुन्छ ।

$F \propto m_1 \times m_2$..... (i)

गुरूत्वाकर्षण बल वस्तुहरूको केन्द्रबिचको दूरीको वर्गसँग व्युत्क्रमानुपातिक हुन्छ ।

$F \propto \frac{1}{d^2}$ .....(ii)

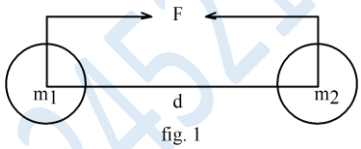

fig. 1

समीकरण (i) र (ii) लाई संयुक्तरूपमा लेख्दा,

$F \propto \frac{m_1 \times m_2}{d^2}$ or, $F = G\frac{m_1 \times m_2}{d^2}$

[∵ G गुरूत्वाकर्षण स्थिराङ्क हो । यसको मान 6.67×10^{-11} Nm^2/kg^2 हुन्छ ।]

21. दिइएका दुई लेन्सको प्रकार उल्लेख गर्नुहोस् । तिमध्ये कुन लेन्सले वस्तुलाई उक्त लेन्सबाट 15 cm मा राख्दा अवास्तविक र वस्तुभन्दा ठुलो आकृति बनाउँछ ? उपयुक्त किरण रेखाचित्र कोर्नुहोस् ।

लेन्सहरू	केन्द्रिकरण दूरी
A	+20 cm
B	-20 cm

A = कन्भेक्स लेन्स

B = कन्केभ लेन्स

ती मध्ये कन्भेक्स लेन्सले वस्तुलाई उक्त लेन्सबाट 15 cm मा राख्दा अवास्तविक र वस्तुभन्दा ठुलो आकृति बनाउँछ ।

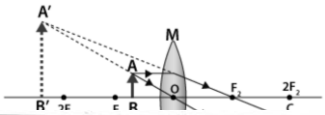

22. दिइएको चित्र अध्ययन गर्नुहोस् ।

(i) चित्रमा X र Y ट्रान्सफर्मरको प्रकार लेख्नुहोस ।

ट्रान्सफर्मर X स्टेप अप ट्रान्सफर्मर हो र Y स्टेप डाउन ट्रान्सफर्मर हो ।

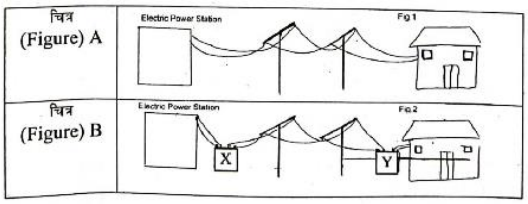

(ii) चित्र A मा जस्तै गरि विद्युत प्रशारण गर्दा हुने दुईओटा समस्याहरू लेख्नुहोस ।

चित्र A मा जस्तै गरि विद्युत् प्रशारण गर्दा हुने दुई समस्याहरू यस प्रकार छन ।

(i) लामो दूरीमा विद्युत् प्रसारण गर्दा भोल्टेजमा कमी हुनेछ ।

(ii) घरायसी उपकरणहरू सञ्चालन गर्न आवश्यकता भन्दा उच्च वा कम भोल्टेज हुनेछ र विद्युतीय उपकरणहरूले कार्य गर्न सक्दैनन् वा उपकरण विग्रन्छन् ।

23. (i) आधुनिक पेरियोडिक नियम लेख्नुहोस् ।

आधुनिक पेरियोडिक नियम: तत्त्वहरूको भौतिक तथा रासायनिक गुणहरू तिनीहरूको पारमाणविक सङ्ख्याको पेरियोडिक कार्यस्वरूप हुन्छन् ।

(ii) तत्त्व A = $1s^2, 2s^2\ 2p^6, 3s^2$

तत्त्व B = $1s^2, 2s^2\ 2p^4$

(a) तत्त्व **B पेरियोडिक तालिकाको कुन ग्रुपमा पर्दछ ?**

तत्त्व B पेरियोडिक तालिकाको VIA ग्रुपमा पर्दछ ।

(b) A र B का बिच हुने रासायनिक प्रतिक्रियाको सन्तुलित रासायनिक समीकरण लेख्नुहोस ।

A र B का बिच हुने रासायनिक प्रतिक्रियाको सन्तुलित रासायनिक समीकरण:

$2Mg + O_2 \rightarrow 2MgO$

◈◈◈

Yamnath Poudel 9848024521