RE – 1041 'KoP' (कोशी प्रदेश)

SEE 2081 (2025)

विज्ञान तथा प्रविधि

समयः ३ घण्टा **पूर्णाङ्कः ७५**

दिइएका निर्देशनका आधारमा आफ्नै शैलीमा सिर्जनात्मक उत्तर दिनुहोस् ।

खण्ड 'क' (Section 'A')

बहुवैकल्पिक प्रश्नहरू (Multiple Choice Questions)

तलका प्रश्नहरूको ठिक विकल्प छानी उत्तरपुस्तिकामा लेख्नुहोस् । **10×1=10**

1. (a) निम्नमध्ये कम्प्युटर मेमोरीको क्षमता नाप्ने एकाई कुन हो ?
(i) हर्ज (HZ) (ii) किलोहज (KHz) (iii) मेगाहर्ज (MHz) (iv) गिगा बाइट्स (GB)

(b) मोनोहाइब्रिड क्रसको दोस्रो वंशमा देखिने सन्तानहरूको लुप्त गुण र प्रवल गुणको आधारमा फिनोटाइपिक अनुपात कुन हुन सक्छ ?
(i) 1:3 (ii) 3:1 (iii) 1:2:1 (iv) 1:1:2

(c) उनिउँमा भाले ग्यामेट उत्पादन गर्ने अङ्ग तलकामध्ये कुन हो ?
(i) एन्थेरिडियम (ii) आर्किगोनियम (iii) सोरस (iv) गेम्मा कप

(d) पेट र छाला सम्बन्धी रोगहरूको उपचार गर्न निम्न मध्ये कुन बिरूवालाई परम्परागत रूपमा प्रयोग गरिन्छ ?
(i) घ्युकुमारी (ii) यार्सागुम्बा (iii) बोजो (iv) तुलसी

(e) यदि पृथ्वीको सतहमा एउटा वस्तुको तौल 294 N 5 भने, चन्द्रमाको सतहमा उक्त वस्तुको तौल कति होला ?
(i) 6 N (ii) 9.8 N (iii) 49 N (iv) 60 N

(f) पानीजहाज समुद्रबाट नदीको पानीमा प्रवेश गर्दा पहिलेको भन्दा बढी डुबेको पाइयो । यसको कारण कुन हो ?
(i) समुद्रको पानीको तापक्रम नदीको पानीको भन्दा बढी भएर ।
(ii) समुद्रको पानीको घनत्व नदीको पानीको भन्दा बढी भएर ।
(iii) समुद्रको पानीको तापक्रम नदीको पानीको भन्दा कम भएर ।
(iv) समुद्रको पानीको घनत्व नदीको पानीको भन्दा कम भएर ।

(g) चित्रमा प्रकाशको किरणको आवर्तन देखाइएको छ । यो अवस्थामा तलकामध्ये कुन तथ्य सही छ ?
(i) माध्यम 1 सघन र माध्यम 2 विरल हो ।
(ii) माध्यम 1 विरल र माध्यम 2 सघन हो ।
(iii) प्रकाशको गति दुवै माध्यममा बराबर हुन्छ ।
(iv) प्रकाशको गति माध्यम 2 मा भन्दा माध्यम 1 मा बढी हुन्छ ।

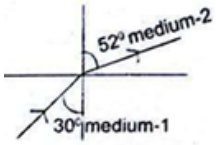

(h) हब्वलको नियम v = Hd मा H को मान कति हुन्छ ?
(i) 65 km/s/Mpc (ii) 68 km/s/Mpc (iii) 70 km/s/Mpc (iv) 73 km/s/Mpc

(i) तलको रासायनिक समिकरणमा 'Y' को संयुज्यता कति हुन्छ ?
$2Y + 6\,HCl \rightarrow 2YCl_3 + 3H_2$
(i) 1 (ii) 2 (iii) 3 (iv) 4

(j) कपडा धुन साबुनभन्दा डिटरजेन्ट राम्रो मानिन्छ, किन ?
(i) डिटरजेन्टहरू कडा र नरम दुवै पानीमा राम्रोसँग काम गर्छन, जवकी साबुनहरू कडा पानीमा कम प्रभावकारी हुन्छन् ।
(ii) डिटरजेन्टहरू बायोडिग्रेडेबल हुन्छन् जवकी साबुन हुँदैनन् ।
(iii) साबुनभन्दा डिटरजेन्ट सस्तो र उत्पादन गर्न सजिलो हुन्छ ।
(iv) डिटरजेन्टहरूले साबुनभन्दा कम प्रदुषण उत्पादन गर्दछ ।

उत्तर कुञ्जिका (Answer Keys):

a. (iv)	b. (i)	c. (i)	d. (i)	e. (iii)	f. (ii)	g. (i)	h. (iv)	i. (iii)	j. (i)

खण्ड 'ख' (Section 'B')

तलका प्रश्नहरूको अति छोटो उत्तर लेख्नुहोस् । **9×1=9**

2. (a) विभिन्न तापक्रममा नुनको घुलनशीलता मापन गरिएको प्रयोगमा आश्रित चर कुन हो ?
विभिन्न तापक्रममा नुनको घुलनशीलता मापन गरिएको प्रयोगमा नुनको घुलनशीलता आश्रित चर हो ।

(b) तरलको घनत्व र ऊर्ध्वचापबीचको सम्बन्ध लेख्नुहोस् ।

Yamnath Poudel 9848024521

तरलले दिने ऊर्ध्वचाप तरलको घनत्वसँग समानुपातिक हुन्छ ।

(c) प्रकाशको पूर्ण आन्तरिक परावर्तनको दैनिक जीवनमा एउटा उपयोग लेख्नुहोस् ।

प्रकाशको पूर्ण आन्तरिक परावर्तनमा आधारित भएर इन्डोस्कोप बनाइएको हुन्छ र इन्डोस्कोपलाई शरीरको भित्री अङ्ग चेकजाँच गर्न प्रयोग गरिन्छ ।

(d) चस्माको प्रयोग नगरी दृष्टिदोष सुधार्ने कुनै एक उपाय लेख्नुहोस् ।

चस्माको प्रयोग नगरी दृष्टिदोष सुधार्न लेजर सर्जरी वा कन्ट्याक्ट लेन्स प्रयोग गरिन्छ ।

(e) 60 Hz आवृति भएको अल्टरनेटिङ करेन्ट ट्रान्सफर्मरको प्राइमरी क्वाइलमा जोड्दा, सेकेन्डरी क्वाइलमा अल्टरनेटिङ करेन्टको आवृति कति हुन्छ?

60 Hz आवृति भएको अल्टरनेटिङ करेन्ट ट्रान्सफर्मरको प्राइमरी क्वाइलमा जोड्दा, सेकेन्डरी क्वाइलमा अल्टरनेटिङ करेन्टको आवृति पनि 60 Hz नै हुन्छ ।

(f) समतल ब्रह्माण्डको परिभाषा लेख्नुहोस ।

ब्रह्माण्डको औसत घनत्व र चरम घनत्व बराबर भएको अवस्थामा ब्रह्माण्डको भविष्यलाई समतल ब्रह्माण्ड भनिन्छ ।

(g) तामाको एउटा धाउको नाम लेख्नुहोस् ।

तामाको एउटा धाउको नाम चाल्कोपाइराइट ($CuFeS_2$) हो ।

(h) प्रकृतिमा सुन शुद्ध अवस्थामा पाइन्छ, किन ?

सुन निष्क्रिय धातु हो जसले गर्दा सामान्य अवस्थामा यसले रासानयनिक प्रतिक्रिया गर्दैन । त्यसैले, प्रकृतिमा सुन शुद्ध अवस्थामा पाइन्छ ।

(i) ग्लिसेरोलको संरचना सूत्र लेख्नुहोस् ।

ग्लिसेरोलको संरचनात्मक सूत्र यसप्रकार छ ।

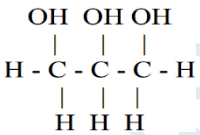

खण्ड 'ग' (Section 'C')

तलका प्रश्नहरूको छोटो उत्तर लेख्नुहोस् । **14×2=28**

3. एकाइगत विश्लेषण प्रयोग गरी $S = t + \frac{1}{2}at^2$ समीकरण ठिक छ वा छैन परीक्षण गर्नुहोस् ।

$S = t + \frac{1}{2}at^2$

दुवैतिर आधारभूत एकाइहरू राख्दा,

or, $m = s + \frac{m \times s^2}{s^2}$ or, $m = s + m$

or, Unit of LHS $\neq$ Unit of RHS

$S = t + \frac{1}{2}at^2$ मा एकइगत एकरुपता छैन । त्यसैले, समीकरण ठिक छैन ।

4. मुटुमा दुई कोठा हुने कुनै एक जीवको नाम लेखी कुनै एकको विशेषता लेख्नुहोस् ।

मुटुमा दुई कोठा हुने जीव माछा हो । माछाको शरीर कत्लाले ढाकेको हुन्छ ।

5. रानी मौरी र भाले मौरी छुट्याउने कुनै दुईओटा विशेषता लेख्नुहोस् ।

रानी मौरी र भाले मौरी छुट्याउने विशेषताहरू यसप्रकार छन् ।

रानी मौरीका विशेषताहरू:

(i) घारको सबैभन्दा ठूलो मौरी हो ।

(ii) एउटा घारमा एउटामात्र भाले मौरी हुन्छ ।

भाले मौरीका विशेषताहरू:

(i) मझौला आकारको हुन्छ ।

(ii) झुँसिलो हुन्छ ।

6. DNA र RNA को बिचमा दुईओटा भिन्नता लेख्नुहोस् ।

DNA र RNA को बिचमा भिन्नताहरू यसप्रकार छन् ।

DNA		RNA	
(i)	DNA मा दुईओटा एन्टीप्यारालल स्ट्रान्डहरू हुन्छन् ।	(i)	RNA मा एकल स्ट्रान्ड हुन्छ ।

Yamnath Poudel 9848024521

(ii)	DNA मा Adenine (A), Guanine (G), Cytosine (C) र Thymine (T) गरी चार किसिमका नाइट्रोजन बेस हुन्छन् ।	(ii)	RNA मा Adenine (A), Guanine (G), Cytosine (C) र Uracil (U) गरी चार किसिमका नाइट्रोजन बेस हुन्छन् ।

7. मानिसमा लिङ्ग निर्धारण कसरी हुन्छ ? चार्टद्वारा देखाउनुहोस् ।

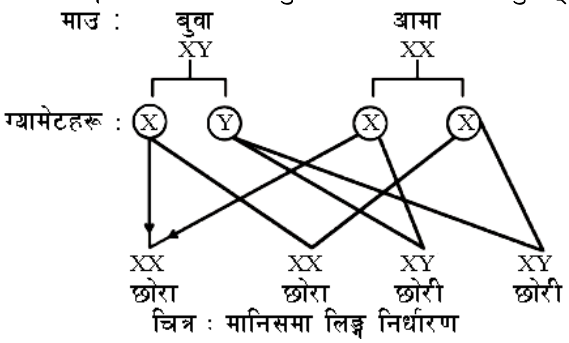

चित्र : मानिसमा लिङ्ग निर्धारण

पुरूषमा रहेको XY क्रोमोजोमबाट मियोसिस कोष विभाजन भएर X र Y क्रोमोजोम भएका शुक्रकीट बन्छन् भने महिलामा XX क्रोमोजोमबाट मियोसिस कोष विभाजन भएर X र X क्रोमोजोम भएको अण्ड बन्छन् । यदि पुरूषको X क्रोमोजोम भएको शुक्रकीट र महिलाको X क्रोमोजोम भएको अण्डबिच मिलन भएमा XX क्रोमोजोम भई छोरी जन्मिन्छ । त्यसैगरी पुरूषको Y क्रोमोजोम भएको शुक्रकीट र महिलाको X क्रोमोजोम भएको अण्डबिच मिलन भएमा XY क्रोमोजोम भई छोरा जन्मिन्छ ।

8. (i) मानव मुटुको कुन कोठाले शुद्ध रगत प्राप्त गर्दछ ?

बाँया अरिकलले शुद्ध रगत प्राप्त गर्दछ ।

(ii) मुटुबाट शरीरका विभिन्न भागमा शुद्ध रगत लैजाने मुख्य धमनीको नाम उल्लेख गर्नुहोस् ।

मुटुबाट शरीरका विभिन्न भागमा शुद्ध रगत लैजाने मुख्य धमनी एओर्टा हो ।

9. चित्रमा दिइएको जडिबुटीको दुई ओटा उपयोगिताहरू लेख्नुहोस् ।

चित्रमा असुरो दिइएको छ । असुरोको दुई ओटा उपयोगिताहरू निम्न छन् ।

(i) स्वासप्रश्वाससम्बन्धी रोगको उपचार गर्न प्रयोग गरिन्छ ।

(ii) फोक्सोमा जमेको खकार निकाल्न, पिसाब पोल्ने समस्या समाधान गर्न प्रयोग गरिन्छ ।

10. चित्रमा देखाइएका वस्तुको खसाइ र चन्द्रमामा वस्तुको खसाइबिच कुनै दुई अन्तर लेख्नुहोस् ।

चित्रमा देखाइएका वस्तुको खसाइ र चन्द्रमामा वस्तुको खसाइबिच फरक यसप्रकार छ ।

पृथ्वीमा वस्तुको खसाइ	चन्द्रमामा वस्तुको खसाइ
पृथ्वीमा X छिटो खस्छ ।	चन्द्रमामा X ढिलो खस्छ ।
X खस्ने प्रवेग 9.8 m/s^2 हुन्छ ।	X खस्ने प्रवेग 1.62 m/s^2 हुन्छ ।

11. एउटा क्रिकेट बललाई 18 m/s को गतिले सिधा माथि आकाशमा फालियो भने उक्त बल अधिकतम कति उचाइसम्म माथितिर जान्छ ? हिसाब गर्नुहोस् । नोटः हावाको अवरोधलाई नगन्य मान्नुहोस् । [SEE 2081 KoP-11]

Sol^n: यहाँ, सुरूको गति (u) = 18 m/s अन्तिम गति (v) = 0

(अधिकतम उचाइमा पुग्दा अन्तिम गति v = 0 m/s हुन्छ ।)

गुरूत्व प्रवेग (g) = (-9.8) m/s^2 (वस्तुमाथि फाल्दा गुरूत्व प्रवेग negative हुन्छ ।)

उचाइ (h) = ?

सूत्रानुसार,

$v^2 = u^2 + 2gh$

or, $0 = 18^2 + 2 \times (-9.8) \times h$

or, $19.6\,h = 324$

$\therefore \quad h = \frac{324}{19.6} = 16.53$ m

त्यसैले, उक्त बल अधिकतम 16.53 m उचाइसम्म माथितिर जान्छ ।

Yam Nath Poudel 9840024521

12. चुम्बक र क्वाइल प्रयोग गरि करेन्ट उत्पादन गर्न सकिने प्रक्रियाको सफा चित्र कोर्नुहोस ।

चुम्बक र क्वाइल प्रयोग गरि करेन्ट उत्पादन गर्न सकिने प्रक्रियाको सफा चित्र यस प्रकार छ ।

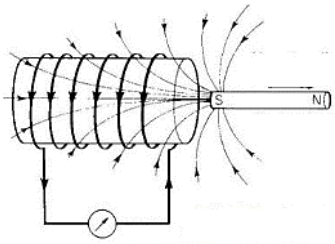

13. ए.सी र डि.सी (अल्टरनेटिङ करेन्ट र डाइरेक्ट करेन्ट बिचमा कुनै दुई भिन्नता लेख्नुहोस ।

AC (ए.सी)		DC (डि.सी)	
(i)	विद्युत्को ध्रुवहरू निरन्तर परिवर्तन हुने विद्युत्लाई ए.सी भनिन्छ ।	(i)	विद्युत्को ध्रुवहरू परिवर्तन नहुने विद्युत्लाई डि.सी भनिन्छ ।
(ii)	यसको आवृति 50 Hz हुन्छ ।	(ii)	यसको आवृति 0 हुन्छ ।

14. दिइएको रासायनिक समीकरणमा यौगिक X को पहिचान गरि समीकरणलाई सन्तुलन गर्नुहोस ।
$X + HCl \rightarrow ZnCl_2 + H_2O$

दिइएको रासायनिक समीकरणमा X यौगिक ZnO (जिन्क अक्साइड) हो र यसको सन्तुलित प्रतिक्रिया निम्न छ ।

$ZnO + 2HCl \rightarrow ZnCl_2 + H_2O$

15. दिइएको यौगिकको संरचनात्मक सूत्रको आधारमा सामान्य आणविक सूत्र लेख्नुहोस् । यस यौगिकको IUPAC नाम पनि लेख्नुहोस् । $H-C\equiv C-H$

संरचनात्मक सूत्रको आधारमा दिइएको यौगिक अल्काइन समूहमा पर्दछ । यसको सामान्य आणविक सूत्र C_nH_{2n-2} हुन्छ । यस यौगिकको IUPAC नाम इथाइन (Ethyne) हो ।

16. प्राकृतिक खाद्य परिरक्षी र रासायनिक खाद्य परिरक्षीमा कुन परिरक्षी राम्रो हुन्छ ? किन ?

प्राकृतिक खाद्य परिरक्षी र रासायनिक खाद्य परिरक्षीमा प्राकृतिक खाद्य परिरक्षी राम्रो हुन्छ किनभने यसले वातावरण प्रदुषण गर्दैन र मानव स्वास्थ्यमा समेत असर गर्दैन ।

खण्ड 'घ' (Section 'D')

तलका प्रश्नहरूको लामो उत्तर लेख्नुहोस् । **7×4=28**

17. (i) चित्रमा दिइएको सञ्चारको प्रसारण च्यानल पहिचान गर्नुहोस ।

चित्रमा दिइएको सञ्चार च्यानल बेसब्याण्ड प्रसारण हो ।

(ii) चित्रमा दिइएको प्रसारण च्यानलका कुनै दुई विशेषताहरू लेख्नुहोस ।

(क) यो प्रसारणका लागि कम व्याण्डविथ भए पुग्छ ।
(ख) यो प्रसारणमा डाटा एक पटकमा एउटा दिशामा प्रवाह हुन्छ ।
(ग) यो छोटो दुरीको लागि डाटा प्रसारण गर्न प्रयोग गरिन्छ ।

(iii) यस प्रसारण च्यानलको उपयोग भएको एउटा उदाहरण दिनुहोस ।

यसको उदाहरण LAN केवलद्वारा डाटा प्रसारण गर्नु हो ।

18. स्थानीय भैंसीसँग उन्नत जातका राँगाहरूको क्रस ब्रीडिङ्ग गराउँदा हुने दुईओटा फाइदा र दुईओटा बेफाइदाहरू लेख्नुहोस् ।

स्थानीय भैंसीसँग उन्नत जातका राँगाहरूको क्रस ब्रिडिङ्ग गराउँदा हुने फाइदाहरू :

(i) धेरै दूध दिने भैंसी प्राप्त गर्न सकिन्छ ।
(ii) उच्च गुणस्तरका भैंसीहरू जन्माउन सकिन्छ ।

स्थानीय भैंसीसँग उन्नत जातका राँगाहरूको क्रस ब्रिडिङ्ग गराउँदा हुन बेफाइदाहरू :

(i) रोगहरू सर्न सक्छन् ।
(ii) स्थानीय भैंसीहरूको शुद्ध गुणस्तर हराउने सम्भावना हुन्छ ।

19. हृदयघात हुनाका कुनै दुईओटा कारणहरू र दुईओटा रोकथामका उपायहरू लेख्नुहेस् ।

हृदयघात हुनाका कुनै दुईओटा कारणहरू यसप्रकार छन् ।

(i) सुर्तीजन्य पदार्थ सेवन र अवैध लागुऔषधको प्रयोग

Yamnath Poudel 9848024521

(ii) उच्च रक्तचाप र तनावपूर्ण जीवनशैली

हृदयघातको रोकथामका उपायहरू यसप्रकार छन् ।

(i) स्वस्थ जीवनशैली अपनाउने

(ii) मद्यपान, धूम्रपान तथा सुर्तीजन्य पदार्थ सेवन नगर्ने

20. (i) चित्रमा देखाइएको अवस्थामा पानीको कुन गुणको कारणले दिइएको जीव बाँच्न सफल छ ?

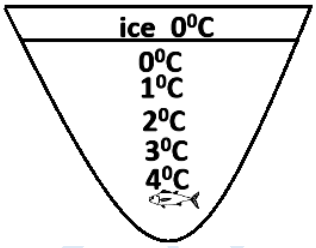

चित्रमा देखाइएको अवस्थामा पानीको अनियमित प्रसारको कारणले दिइएको जीव बाँच्न सफल छ ।

(ii) 0^0C को पानी सबैभन्दा माथि तैरिएको छ ? किन ?

पानीको घनत्व 4^0C मा भन्दा 0^0C मा कम हुने भएकोले 0^0C को पानी सबैभन्दा माथि तैरिएको छ ।

(iii) पानीको यस गुणको जैविक महत्त्व लेख्नुहोस् ।

पानीको असाधारण प्रसारले गर्दा जाडो याममा पोखरीको सतहको पानी जमेर बरफ बनेको भए पनि पोखरीको पिँधमा पानीको तापक्रम 4^0C हुन्छ र जलचरहरू बाँचिरहेका हुन्छन् ।

(iv) दैनिक जीवनमा पानीको यस गुणले निम्त्याउने एउटा समस्या उल्लेख गर्नुहोस् ।

जाडो याममा पानीको पाइपहरू फुट्छन् ।

21. (i) कन्भेक्स र कन्केभ लेन्स बिचमा कुनै दुई भिन्नता लेख्नुहोस् ।

कन्भेक्स र कन्केभ लेन्स बिचमा कुनै दुई भिन्नता लेख्नुहोस् ।

कन्भेक्स लेन्स		कन्केभ लेन्स	
(i)	छेउछेउको भाग पातलो र बिचको भाग बाक्लो भएको लेन्सलाई कन्भेक्स लेन्स भनिन्छ ।	(i)	छेउको भाग बाक्लो र बिचको भाग पातलो भएको लेन्सलाई कन्केभ लेन्स भनिन्छ ।
(ii)	यसको केन्द्रीकरण दूरी धनात्मक हुन्छ ।	(ii)	यसको केन्द्रीकरण दूरी ऋणात्मक हुन्छ ।

(ii) एकजना विद्यार्थीले लगाएको चश्माको सामर्थ्य 4 D छ । त्यस चश्मामा कुन प्रकारको लेन्स प्रयोग गरिएको छ । उक्त लेन्सको केन्द्रीकरण दूरी कति हुन्छ ?

विद्यार्थीले लगाएको चश्माको सामर्थ्य 4 D भएकोले त्यो कन्भेक्स लेन्स हो किनभने कन्भेक्स लेन्सको सामर्थ्यलाई धनात्मक चिन्हले सङ्केत गरिन्छ ।

यहाँ, लेन्सको सामर्थ्य (P) = 4 D केन्द्रीकरण दूरी (f) = ?

सूत्रबाट, $P = \frac{1}{f}$ or, $f = \frac{1}{P}$ or, $f = \frac{1}{4} = 0.25$ m

∴ लेन्सको केन्द्रीकरण दूरी 25 cm हुन्छ ।

22. दिइएको तालिका अध्ययन गर्नुहोस र निम्न प्रश्नहरूको उत्तर दिनुहोस ।

तत्त्व	इलेक्ट्रोन विन्यास
P	**$1s^2, 2s^2 2p^5$**
Q	**$1s^2, 2s^2 2p^6, 3s^2$**
R	**$1s^2, 2s^2 2p^6, 3s^2 3p^5$**

(i) तत्त्व Q को संयुज्यता लेख्नुहोस ।

तत्त्व Q को संयोज्यता दुई हुन्छ ।

(ii) P र R मध्ये कुन बढी सक्रिय छ ? किन ?

यी दुई तत्त्व मध्ये तत्त्व R भन्दा तत्त्व P बढी क्रियाशील छ । किनभने तिनीहरू दुवै अधातु हुन र P परमाणुको आकार R परमाणुको भन्दा सानो छ । त्यसैले P परमाणुले R परमाणुभन्दा भन्दा छिटो इलेक्ट्रोन प्राप्त गर्न सक्छ ।

(iii) तत्त्वहरू Q र R को बीचमा रासायनिक प्रतिक्रिया हुँदा हुने सन्तुलित रासायनिक समीकरण लेख्नुहोस ।

तत्त्वहरू Q र R को बीचमा रासायनिक प्रतिक्रिया हुँदा हुने सन्तुलित रासायनिक समीकरण यस प्रकार छ ।

$Mg + Cl_2 \rightarrow MgCl_2$

23. सँगै दिइएको चित्रको आधारमा निम्न प्रश्नको उत्तर दिनुहोस् ।

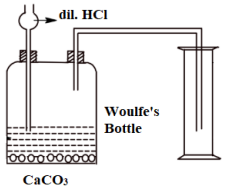

(i) देखाइएको चित्रको भाँडामा हुने रासायनिक प्रतिक्रियाको सन्तुलित रासायनिक समीकरण लेख्नुहोस् ।

भाँडामा हुने रासायनिक प्रतिक्रियाको सन्तुलित रासायनिक समीकरण यसप्रकार छ ।

$CaCO_3 + 2HCl \rightarrow CaCl_2 + CO_2 + H_2O$

(ii) के हाइड्रोक्लोरिक एसिडको सट्टा फिक्का सल्फ्युरिक एसिडको प्रयोग गर्न सकिन्छ ? किन?

Yamnath Poudel 9848024524

हाइड्रोक्लोरिक एसिडको सट्टा फिक्का सल्फ्युरिक एसिडको प्रयोग गर्न सकिदैन किनभने प्रयोगशालामा कार्बनडाईअक्साइड ग्याँस बनाउँदा फिक्का हाइड्रोक्लोरिक एसिड राख्दा पानीमा घुलनशील क्याल्सियम क्लोराइड बन्ने भएकाले कार्बन डाईअक्साइड ग्याँस निस्किरहन्छ तर फिक्का सल्फ्युरिक एसिड राख्दा पानीमा अघुलनशील क्याल्सियम सल्फेट ($CaSO_4$) बन्ने भएकाले यसले चुनढुङ्गाका टुक्राहरू ($CaCO_3$) लाई ढाकिदिन्छ र रासायनिक प्रतिक्रिया नै बन्द हुने भएकाले कार्बन डाईअक्साइड ग्याँस प्राप्त हुँदैन ।

(iii) यसलाई ठाडो ग्याँस जारमा जम्मा गरिनुको कारण के हो ?

कार्बनडाइअक्साइड ग्याँस हावाभन्दा गह्रौं ग्याँस हो । त्यसैले यसले हावालाई माथितिर विस्थापित गर्न सक्छ । तसर्थ यसलाई ठाडो ग्याँस जारमा जम्मा गरिन्छ ।

◈◈◈

Yam Nath Poudel 9848024521