RE – 1041 'MP' (मधेष प्रदेश)

SEE 2081 (2025)

विज्ञान तथा प्रविधि

समयः ३ घण्टा **पूर्णाङ्कः ७५**

दिइएका निर्देशनका आधारमा आफ्नै शैलीमा सिर्जनात्मक उत्तर दिनुहोस् ।

खण्ड 'क' (Section 'A')

बहुवैकल्पिक प्रश्नहरू (Multiple Choice Questions)

तलका प्रश्नहरूको ठिक विकल्प छानी उत्तरपुस्तिकामा लेख्नुहोस् । **10×1=10**

1. **(a)** तलको कुन क्रियाकलापमा डिजिटल सिग्नल प्रसारण हुन्छ ?

(i) लाउडस्पीकरबाट बोल्दा (ii) आपसमा प्रत्यक्ष कुराकानी गर्दा

(iii) इन्टरनेटमा कुराकानी गर्दा (iv) एन्टेनाजडित टि.भि. हेर्दा

(b) तलका मध्ये कुन विरूवा एल्गी डिभिजन अन्तर्गत पर्दछ ?

(i) केराउ (ii) मस **(iii) स्पाइरोगाइरा** (iv) साइकस

(c) तलका मध्ये कोषमा कोषभित्ता हुने जगत्हरू कुन कुन हुन् ?

(i) मोनेरा, फन्जाइ, एनिमलिया (ii) प्लान्टी, प्रटिस्टा, एनिमलिया

(iii) फन्जाइ, प्लान्टी, एनिमलिया **(iv) फन्जाइ, प्लान्टी, मोनेरा**

(d) आज भोलि कहिले अल्पवृष्टि त कहिले अतिवृष्टि भएर कृषि उत्पादनमा बाधा पुग्न गएको छ । यसको मुख्य कारण तलका मध्ये कुन हो ?

(i) ज्वालामुखी विस्फोटन (ii) बाढी र पहिरो **(iii) जलवायु परिवर्तन** (iv) दुर्लभ वन्यजन्तुको ह्रास

(e) यदि कुनै खगोलीय पिण्ड र अर्धव्यास क्रमशः पृथ्वीको पिण्ड र अर्धव्यासभन्दा 4 गुणा बढी 5 भने सो वस्तुको गुरूत्व प्रवेग कति हुन्छ ?

(i) 1.22 m/s^2 **(ii) 2.45 m/s^2** (iii) 4.9 m/s^2 (iv) 9.8 m/s^2

(f) एउटा आल्मिनियमको फोइललाई पानीले भरिएको विकरमा राख्दा तैरिन्छ तर त्यही फोइललाई डल्लो बनाएर पानीमा राख्दा डुब्छ, यसको कारण के होला ?

(i) सतहको क्षेत्रफल कम हुन्छ, ऊर्ध्वचाप घट्छ र डुब्छ ।

(ii) तौल बढ्छ र डुब्छ ।

(iii) सतहको क्षेत्रफल बढ्छ र डुब्छ ।

(iv) फोइलको घनत्व बढ्छ र डुब्छ ।

(g) प्रिज्मबाट हुने प्रकाशको विच्छेदनका क्रममा देखिने हरियो, बैजनी र रातो रङका प्रकाश किरणको प्रिज्मभित्रको वेगलाई क्रमशः V_g, V_v, V_r ले जनाइएको छ । ती बेगका लागि कुन क्रम सही हुन्छ ?

(i) $V_g > V_v > V_r$ **(ii) $V_g > V_v < V_r$**

(iii) $V_g < V_r < V_v$ (iv) $V_g > V_r < V_v$

(h) कुन अवस्थामा बन्द ब्रह्माण्डको परिकल्पना गर्न सकिन्छ ?

(i) औसत घनत्व चरम घनत्वभन्दा बढी भएको अवस्थामा

(ii) औसत घनत्व, चरम घनत्व भन्दा कम भएको अवस्थामा

(iii) औसत घनत्व र चरम घनत्व बराबर भएको अवस्थामा

(iv) औसत घनत्व र चरम घनत्व तुलना गर्न नसकिने अवस्थामा

(i) रासायनिक प्रतिक्रियाको दरमा तापको प्रभाव तलका मध्ये कुन हो ?

(i) ताप बढाउँदा कणहरूको गति शक्ति बढ्छ र कणहरू छिटो सम्पर्कमा आउँछन ।

(ii) ताप बढाउँदा रासायनिक सक्रियता घट्छ ।

(iii) ताप र रासायनिक प्रतिक्रियाको दरमा कुनै सम्बन्ध छैन ।

(iv) ताप बढ्दा पदार्थको गाढापन बढ्छ त्यसैले प्रतिक्रियाको दर बढ्छ ।

(j) एउटा कथन र दुईओटा तर्क दिइएको छ ।

कथन : डिटरजेन्टलाई साबुनरहित साबुन भनिन्छ ।

तर्क १ : यसले साबुनले जस्तै वस्तु सफा गर्छ तर रासायनिक गुणहरू फरक छन् ।

तर्क २ : साबुनले रासायनिक प्रदुषण गर्दैन भने डिटरजेन्टले गर्छ ।

(i) कथन र तर्क १ सही तर तर्क २ गलत ।

(ii) कथन र तर्क १ गलत तर तर्क २ सही ।

(iii) कथन र तर्क २ गलत तर तर्क १ सही ।

(iv) कथन र तर्क २ सही तर तर्क १ गलत ।

Yam Nath Poudel 9848024521

उत्तर कुञ्जिका (Answer Keys):

a. (iii)	b. (iii)	c. (iv)	d. (iii)	e. (ii)	f. (i)	g. (ii)	h. (i)	i. (i)	j. (iv)

खण्ड 'ख' (Section 'B')

तलका प्रश्नहरूको अति छोटो उत्तर लेख्नुहोस् । **9×1=9**

2. (a) रबर तन्काएर ढुङ्गा फाल्ने क्रियामा आश्रित चर कुन हुन्छ ?

रबर तन्काएर ढुङ्गा फाल्दा, ढुङ्गाको गति वा दूरी आश्रित चर हो किनभने त्यो रबर कति तन्काइएको छ भन्ने कुरामा निर्भर गर्छ ।

(b) 1 पास्कल चापको परिभाषा दिनुहोस् ।

1 m^2 क्षेत्रफल भएको वस्तुमाथि 1 N बल लगाउँदा उत्पन्न हुने चापलाई 1 पास्कल चाप भनिन्छ ।

(c) प्रकाशको आवर्तन देखाउने चित्र खिच्नुहोस् ।

प्रकाशको आवर्तन देखाउने चित्र यसप्रकार छ ।

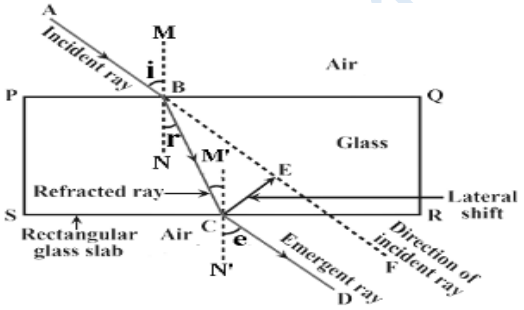

Fig.:Refraction of light on glass slab

(d) हब्बलको नियमअनुसार ताराको गति के कुरामा निर्भर हुन्छ ?

हब्बलको नियमअनुसार ताराको गति ताराहरूबिचको दुरीमा भर पर्छ ।

(e) दिइएको रेखाचित्र पुरा गर्नुहोस् ।

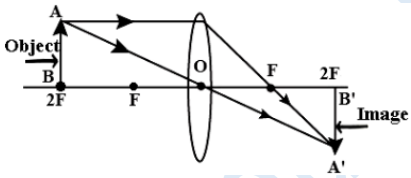

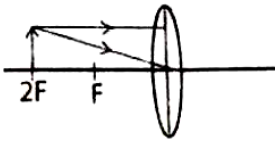

(f) रोस्टिङ र क्यालिसनेसन बिच कुनै एक फरक लेख्नुहोस् ।

रोस्टिङ		क्यालिसनेसन	
(i)	धाउलाई भट्टीमा राखी प्रचुर मात्रामा हावाको प्रवाह गराई धाउमा भएको धातुलाई तताएर यसको अक्साइडमा परिवर्तन गर्ने विधिलाई रोस्टिङ भनिन्छ ।	(i)	धाउलाई भट्टीमा राखी हावाको प्रवाहबीना वा अक्सिजनको अनुपस्थितिमा तताई धातुको अक्साइडमा परिवर्तन गर्ने विधिलाई क्यालिसनेसन भनिन्छ ।

(g) सोडियम, एलुमिनियम र म्याग्नेसियम धातुलाई रासायनिक सक्रियताको बढ्दो क्रममा लेख्नुहोस ।

यी तत्त्वहरूको बढ्दो सक्रियताको क्रम यस प्रकार हुन्छ ।

एलुमिनियम < म्याग्नेसियम < सोडियम

(h) दिइएको हाइड्रोकार्बनको दैनिक जीवनमा एउटा उपयोगिता लेख्नुहोस् ।

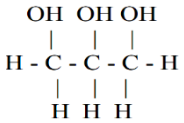

दिइएको हाइड्रोकार्बन ग्लिसेरोल हो । उच्च स्तरको साबुन, लोसन, कस्मेटिक र सेभिङ क्रिम बनाउन यसको प्रयोग गरिन्छ ।

(i) अल्टर्नेटिङ करेन्ट र समयको सम्बन्ध देखाउने ग्राफ बनाउनुहोस ।

अल्टर्नेटिङ करेन्ट र समयको सम्बन्ध देखाउने ग्राफ यस प्रकार छ ।

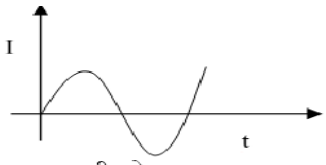

ए.सी करेन्ट

खण्ड 'ग' (Section 'C')

तलका प्रश्नहरूको छोटो उत्तर लेख्नुहोस् । **14×2=28**

3. सामर्थ्यको आधारभूत एकाईहरू kgm^2/s^3 हुन्छ भनी प्रमाणित गर्नुहोस् ।

सामर्थ्य (P) $= \frac{\text{कार्य (W)}}{\text{समय (t)}} = \frac{J}{s}$

सामर्थ्य (P) मा संलग्न आधारभूत एकाइ (P) $= \frac{kgm \times m}{s^2 \times s}$ [$\because J = Nm$ र $N = \frac{kgm}{s^2}$]

or, $P = \frac{kgm^2}{s^3}$ प्रमाणित भयो ।

4. पंछी वर्गको कुनै दुई मुख्य विशेषताहरू लेख्नुहोस् ।

पंछी वर्गको मुख्य विशेषताहरू यसप्रकार छन् ।

(i) शरीर प्वाँखले ढाकिएको हुन्छ ।

(ii) यिनीहरूको शरीरमा खोको हाड हुन्छ ।

5. दिइएको कन्सेप्ट म्याप अध्ययन गरी Y र Z को एक एक ओटा कार्य लेख्नुहोस् ।

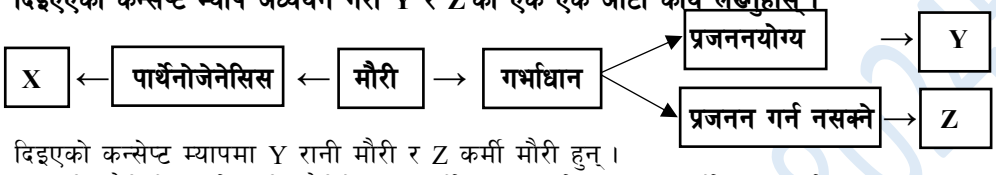

दिइएको कन्सेप्ट म्यापमा Y रानी मौरी र Z कर्मी मौरी हुन् ।

Y रानी मौरीको कार्य: रानी मौरीले फुल पार्ने र घारलाई सञ्चालन गर्ने काम गर्छ ।

Z कर्मी मौरीको कार्य: कर्मी मौरीले फूलको रस जम्मा गर्ने र घारको सुरक्षा गर्दछन् ।

6. माइटोसिस र मियोसिस कोष विभाजन बिच कुनै दुई भिन्नताहरू लेख्नुहोस् ।

माइटोसिस र मियोसिस कोष विभाजन बिच भिन्नताहरू यसप्रकार छ ।

	माइटोसिस		मियोसिस
(i)	एउटा कोष विभाजन भएर दुईओटा डिप्लोइड कोषहरू बन्ने कोष विभाजनलाई माइटोसिस कोष विभाजन भनिन्छ ।	(i)	एउटा कोष विभाजन भएर चारओटा हेप्लोइड कोषहरू बन्ने कोष विभाजनलाई मियोसिस कोष विभाजन भनिन्छ ।
(ii)	माइटोसिस कोष विभाजन प्रजनन कोषबाहेक शरीरका अन्य कोषमा हुन्छ ।	(ii)	मियोसिस कोष विभाजन प्रजनन कोषमा हुन्छ ।

7. शुद्ध लामो (LL) पखेटा भएको ड्रोसोफिला र शुद्ध छोटो (ll) पखेटा भएको ड्रोसोफिला बिच गर्भाधान गराउँदा दाम्रो वंशसम्मको नतिजा चार्टमा देखाउनुहोस् ।

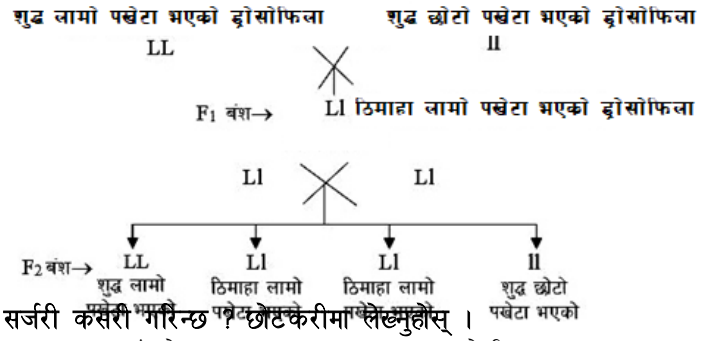

8. ओपन हर्ट सर्जरी कसरी गरिन्छ ? छोटकरीमा लेख्नुहोस् ।

रक्त नसा अवरूद्ध वा साँघुरो भएका कारण मुटुका मासपेशीसम्म रक्त प्रवाह पुग्न नसकेमा नयाँ बाटो बनाई रक्त प्रवाह सहज बनाउने आपतकालीन शल्यक्रियालाई ओपन हर्ट सर्जरी भनिन्छ। ओपन हर्ट सर्जरीमा डाक्टरले खुट्टाको तल्लो भागबाट एउटा पाइप (नली) छिराएर नशा बन्द भएको स्थान खोल्ने काम गर्छन् ।

9. आजभोली हिमाली भेगका हिउँ पग्लेर हिमालहरू काला पथ्थरमा परिणत भइरहेका छन् । यस प्रक्रियालाई कसरी रोक्न सकिन्छ ? कुनै दुई उपायहरू लेख्नुहोस् ।

आजभोली हिमाली भेगका हिउँ पग्लेर हिमालहरू काला पथ्थरमा परिणत भइरहेका छन् । यसको कारण जलवायु परिवर्तन हो । यस प्रक्रियालाई निम्नानुसार रोक्न सकिन्छ ।

(i) कार्बन उत्सर्जन कम गर्ने ।

(ii) वृक्षारोपण गर्ने र वन विनाश रोक्ने ।

10. वस्तु तौलविहीन हुने कुनै दुई अवस्थाहरू लेख्नुहोस ।

(i) स्वतन्त्र खसाइको अवस्थामा

(ii) वस्तु अन्तरीक्षको तटस्थ विन्दुमा भएको अवस्थामा

11. चित्रमा दिइएका वस्तुहरू A र B बिच उत्पन्न हुने गुरूत्वाकर्षण बल हिसाब गर्नुहोस् ।

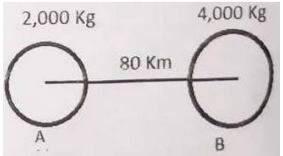

Sol^n. : दिइएको, A वस्तुको पिण्ड $(m_1) = 2000$ kg B वस्तुको पिण्ड $(m_1) = 4000$ kg

A वस्तु र B वस्तुबिचको दूरी (d)= 80 km = 80 ×1000 m = 8×10^4 m

$G = 6.67\times10^{-11}\ Nm^2/kg^2$

गुरूत्वाकर्षण बल (F) = ?

सूत्रअनुसार, $F = \frac{Gm_1m_2}{d^2} = \frac{6.67\times10^{-11}\times 2000\times4000}{(8\times10^4)^2} = 8.33\times10^{-14}N$

∴ गुरूत्वाकर्षण बल (F) = 8.33×10^{-14} N

12. प्रयोगशालामा एमोनिया ग्याँस बनाउँदा आवश्यक पर्ने सामग्रीको चित्र बनाउनुहोस।

प्रयोगशालामा एमोनिया ग्याँस बनाउँदा आवश्यक पर्ने सामग्रीको चित्र यसप्रकार छ ।

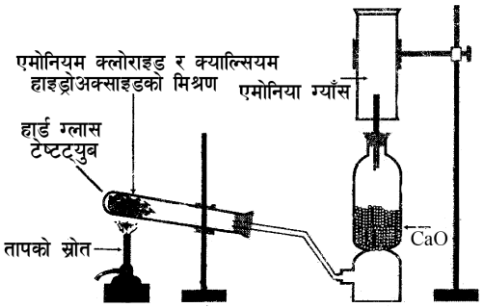

13. प्रकाशको उपस्थितिमा हुने एउटा रासायनिक प्रतिक्रियाको सूत्र समीकरण लेखि सन्तुलन गर्नुहोस ।

प्रकाशको उपस्थितिमा हुने एउटा रासायनिक प्रतिक्रियाको सन्तुलित समीकरण यस प्रकार छ ।

$$2AgBr \xrightarrow{light} 2Ag + Br_2$$

14. अल्काइनको सदस्यमध्ये कार्बन र हाइड्रोजनको सङ्ख्या बराबर हुने यौगिकको नाम लेखि यसको संरचनात्मक सूत्र लेख्नुहोस् ।

अल्काइनको सदस्यमध्ये कार्बन र हाइड्रोजनको सङ्ख्या बराबर हुने यौगिकको नाम इथाइन हो । इथाइनको संरचनात्मक सूत्र यसप्रकार छ ।

$$H-C\equiv C-H$$

15. अत्यधिक मात्रामा रासायनिक किटनाशक विषादीको प्रयोगको कारणले मानव स्वास्थ्यमा जटिल समस्या देखापर्न थालेका छन् । यस्ता किसिमका समस्या न्युनिकरणका लागि दुईओटा सुझावहरू लेख्नुहोस् ।

यस्ता किसिमका समस्या न्युनिकरणका लागि निम्न उपायहरू अपनाउन सकिन्छ ।

(i) एकीकृत शत्रुजीव व्यवस्थापन प्रक्रिया अपनाउने

(ii) रासायनिक विषादीको प्रयोग न्युनिकरण गर्दै जैविक विषादीको प्रयोग बढाउने ।

16. आणविक भार 17 amu र 44 amu हुने ग्याँसलाई रासायनिक प्रतिकिया गराउँदा हुने सन्तुलित रासायनिक समीकरण लेख्नुहोस् ।

आणविक भार 17 amu भएको एमोनिया ग्याँस हो भने 44 amu हुने ग्याँस कार्बन डाइअक्साइड हो । यी दुईबिच रासायनिक प्रतिकिया गराउँदा हुने सन्तुलित रासायनिक समीकरण यसप्रकार छ ।

$$2NH_3 + CO_2 \xrightarrow{1500^oC} NH_2 - CO - NH_2 + H_2O$$

खण्ड 'घ' (Section 'D')

तलका प्रश्नहरूको लामो उत्तर लेख्नुहोस् । **7×4=28**

17. डिजिटल आरोग्यता हासिल गर्ने कुनै चार तरिका उल्लेख गर्नुहोस ।

डिजिटल आरोग्यता प्राप्त गर्ने तरिकाहरू यस प्रकार छन् ।

(i) मोबाइल र ल्यापटपको लागि स्क्रिन समय घटाउने,

(ii) मोबाइल एप र उपकरणहरू प्रयोग गर्न उमेर सीमा कायम राख्ने,

(iii) ध्यान र शारीरिक व्यायाममा संलग्न हुने,

(iv) शारीरिक खेल र सामाजिक कार्यहरूमा संलग्न हुने ।

Yamnath Poudel 9848024521

18. कृत्रिम गर्भाधानबाट सन्तान जन्माउँदा हुने दुई फाइदाहरू र दुई बेफाइदाहरू उललेख गर्नुहोस् ।

कृत्रिम गर्भाधानबाट सन्तान जन्माउँदा हुने दुई फाइदाहरू यसप्रकार छन् ।

(i) प्रजननका लागि भाले जनावरको पालनपोषण गर्नु नपर्ने भएकोले पालनपोषण खर्च बचत हुन्छ ।

(ii) यसले सम्भोगका कारण सङ्क्रमण भई फैलन सक्ने रोगको नियन्त्रण गर्न मद्दत गर्छ ।

कृत्रिम गर्भाधानबाट सन्तान जन्माउँदा हुने दुई बेफाइदाहरू यसप्रकार छन् ।

(i) राम्रोसँग प्रशिक्षित जनशक्ति र विशेष उपकरण चाहिन्छ ।

(ii) यसको तयारीका लागि प्राकृतिक प्रजननमा भन्दा बढी समय चाहिन्छ ।

19. दुईजना विद्यार्थीको रक्त समूह परीक्षण गर्दाको नतिजा तालिकामा देखाइएको छ । विद्यार्थी A र विद्यार्थी B को रक्त समूह पहिचान गनुहोस् । कस्तोलाई A पोजेटिभ र कस्तोलाई O नेगेटिभ सक्त समूह भनिन्छ ।

विद्यार्थी A			
एन्टिजेन	A	B	D
रगत जम्ने	देखियो	देखिएन	देखियो

विद्यार्थी B			
एन्टिजेन	A	B	D
रगत जम्ने	देखिएन	देखियो	देखियो

विद्यार्थी A को रक्त समूह A-positive र विद्यार्थी B को रक्त समूह B-Positive हो ।

व्यक्तिको रगतमा एन्टिजेन A र एन्टिजेन वा रिसस् फ्याक्टर D भएको रक्त समूहलाई **A पोजेटिभ** रक्त समूह भनिन्छ । त्यसैगरी, रगतमा एन्टिजेन A, एन्टिजेन B र एन्टिजेन वा रिसस् फ्याक्टर D कुनै पनि एन्टिजेन नभएको रक्त समूहलाई **O नेगेटिभ** रक्त समूह भनिन्छ ।

20. बराबर पिण्ड भएका तीनओटा तरल पदार्थहरू X, Y र Z उस्तै भाँडामा बराबर समय घाममा राखिएको छ । उक्त भाँडामा हुने तापक्रम वृद्धि तल तालिकामा दिइएको छ ।

तरल	तापक्रम वृद्धि
X	30^0C
Y	35^0C
Z	28^0C

(i) यी मध्ये कुन तरल पदार्थको विशिष्ट तापधारण क्षमता बढी छ ? किन ?

यी मध्ये Z तरल पदार्थको विशिष्ट तापधारण क्षमता बढी छ किनभने तापक्रम वृद्धि पदार्थको विशिष्ट तापधारण क्षमतासँग व्युत्क्रमानुपातिक हुन्छ । यहाँ Z को तापक्रम वृद्धि सबैभन्दा कम भएकाले विशिष्ट तापधारण क्षमता बढी हुन्छ ।

(ii) यदि तीनओटै तरलका समान तापक्रममा रहेका बराबर पिण्डलाई चिस्याइयो भने, कुन तरल पदार्थ छिटो चिसो हुन्छ ? किन ?

यदि तीनओटै तरलका समान तापक्रममा रहेका बराबर पिण्डलाई चिस्याइयो भने, Y तरल पदार्थ छिटो चिसो हुन्छ किनभने विशिष्ट तापधारण क्षमता कम हुने पदार्थको तापक्रम वृद्धि र तापक्रम घट्ने छिटो हुन्छ ।

21. दिइएको चित्रको अध्ययन गरी सोधिएका प्रश्नहरूको उत्तर दिनुहोस ।

(a) यो कमजोरीका दुईओटा कारणहरू लेख्नुहोस् ।

चित्रमा दिइएको आँखाको कमजोरी अदूर दृष्टि हो । यसका कारणहरू यस प्रकार छन् ।

(i) आँखाको लेन्स बढी बाक्लो हुनु ।

(ii) आँखाको आइबलको आकार बढ्नु ।

(b) चित्रमा दिइएको आँखाको कमजोरी हटाउन कुन प्रकारको लेन्स प्रयोग गरिन्छ ? किन ?

अदूर दृष्टि हटाउन कन्केभ लेन्सको प्रयोग गर्नुपर्छ किनभने कन्केभ लेन्सले प्रकाशको किरणलाई विकेन्द्रित गरी रेटिनासम्म पुऱ्याउँछ र स्पष्ट आकृति बनाउँछ ।

22. एउटा पावरहाउसमा जडान गरिएको ट्रान्सफर्मरको प्राइमरी फन्काको संख्या र सेकेण्डरी फन्काको संख्या 1:80 को अनुपातमा छ । यदि उक्त ट्रान्सफर्मरको प्राइमरी फन्कामा 400 V पठाइएको रहेछ भने त्यसको सेकेन्डरी फन्कामा कति भोल्टेज उत्पादन हुन्छ ? उक्त ट्रान्सफर्मर ग्राहस्थ्य विद्युतीकरणमा प्रयोग गर्न मिल्छ कि मिल्दैन, एउटा कारण दिनुहोस ।

दिइएको,

प्राइमरी फन्काको संख्या (Np) = x

सेकेण्डरी फन्काको संख्या (Ns) = 80x

प्राइमरी भोल्टेज (Vp) = 400 V

सेकेन्डरी भोल्टेज (Vs) = ?

सूत्र अनुसार,

$\frac{Vs}{Vp} = \frac{Ns}{Np}$ or, $Vs = \frac{Ns}{Np} \times Vp$ or, $Vs = \frac{80x}{x} \times 400$

or, $Vs = 80 \times 400$ $\therefore Vs = 32000$ V

यो ट्रान्सफर्मर ग्राहस्थ्य विद्युतीकरणमा प्रयोग गर्न सकिँदैन किनभने यो स्टेप अप ट्रान्सफर्मर हो तर ग्राहस्थ्य विद्युतीकरणमा सामान्यतया स्टेप डाउन ट्रान्सफर्मर चाहिन्छ ।

Yam Nath Poudel 9848021521

23. पेरियोडिक तालिकाको एउटा अंश दिइएको छ यसमा वास्तविक तत्त्वहरूलाई काल्पनिक सङ्केतले जनाइएको छ । यसलाई अध्ययन गरी तलका प्रश्नहरूको उत्तर दिनुहोस ।

पिरियड	IA	IIA	IIIA	IVA	VA	VIA	VIIA	0
n=2	c	b						Ne
n=3							a	d

(i) तत्त्व 'a' को उपसेलको आधारमा इलेक्ट्रोनिक विन्यास गर्नुहोस ।

तत्त्व 'a' को उपसेलको आधारमा इलेक्ट्रोनिक विन्यास $1s^2, 2s^2\ 2p^6, 3s^2\ 3p^5$

(ii) तत्त्व c भन्दा b बढि सक्रिय हुन्छ, किन ?

तत्त्व c को संयुज्यता एक छ भने तत्त्व b को संयुज्यता दुई छ । त्यसैले तत्त्व b भन्दा तत्त्व c बढी क्रियाशील छ ।

(iii) तत्त्व a को पारमाणविक आकार तत्त्व d को भन्दा ठुलो हुन्छ, किन ?

तत्त्व a भन्दा तत्त्व d सँग प्रोटोनको सूख्या बढी हुने भएकाले इलेक्ट्रोन र न्यूक्लियसबीचको आकर्षणबल पनि तत्त्व a भन्दा तत्त्व d सँग बढी हुन्छ । त्यसैले, d परमाणुको आकार बढी संकुचित हुन्छ र तत्त्व a भन्दा सानो आकार बनाउँछ ।

Yam Nath Poudel 9848024521