Website : yamnathpoudel.com.np
Facebook : facebook.com/yamnath.poudel.35

yamnathpoudel.com.np

Re - 1041'SP'

SEE 2080 (2024)

विज्ञान तथा प्रविधि Science & Technology)

समय: ३ घण्टा पूर्णाङ्क :७५

दिइएका निर्देशनका आधारमा आफ्नै शैलीमा सिर्जनात्मक उत्तर दिनुहोस् ।

खण्ड 'क' (Section 'A')

1. तलका प्रश्नहरूको ठीक विकल्प छानी उत्तरपुस्तिकामा लेख्नुहोस् । **(10×1=10)**

a. तलका मध्ये मौरीको जीवनचक्रमा खन्चुवा अवस्था कुन हो ?

(i) अण्डा (ii) लार्भा (iii) प्युपा (iv) वयस्क

b. मानवको सोमाटिक कोषमा कति जोडा क्रोमोजोमहरू हुन्छन् ?

(i) 21 जोडा (ii) 22 जोडा (iii) 23 जोडा (iv) 24 जोडा

c. तलका मध्ये कुन रक्त नलीले मुटुबाट फोक्सोमा रगत लैजान्छ ?

(i) पल्मोनरी भेन (ii) पल्मोनरी आर्टरी (iii) भेनाकाभा (iv) एओर्टा

d. गाडीको तातो इन्जिन चिस्याउन पानीको प्रयोग गरिन्छ, किन ?

(i) पानी घेरै उपलब्ध हुने हुनाले

(ii) पानी तरल पदार्थ हुनाले

(iii)पानीको विशिष्ट तापधारण क्षमता अन्य वस्तुको तुलनामा कम हुनाले

(iv)पानीको विशिष्ट तापधारण क्षमता सबैभन्दा बढी हुने हुनाले

e. पेरियोडिक तालिकाको ग्रुप IIA (2) का तत्वहरू कुन ब्लकमा पर्छन् ?

(i) s ब्लक (ii) p ब्लक (iii) d ब्लक (iv) f ब्लक

f. C_nH_{2n} सामान्य सूत्र भएको हाइड्रोकार्बनको नाममा कुन प्रत्यय हुन्छ ?

(i) - ane (ii) - ene (iii) - ol (iv) - yne

g. दिइएको तालिकामा सजीव र तिनीहरूका विशेषताको कुन जोडा सही छ ?

सजीव	विशेषता
P. सल्लाको बिरुवा	1. मांसहारी
Q. बाघ	2. जमिन र पानी दुवै ठाउँमा बस्ने
R. माछा	3. जाडो ठाउँमा पाइने
S. भ्यागुता	4. स्ट्रिमलाइन शरीर भएको

(i) P-1, Q-2, R-3, S-4 (ii) P-3, Q-2, R-4, S-1

(iii) P-3, Q-1, R-4, S-2 (iv) P-2, Q-1, R-4, S-3

h. 100 के. जी. पिण्ड भएको वस्तुको तौल चन्द्रमामा कति हुन्छ ?

(i) 2500 N (ii) 1000 N (iii) 980 N (iv) 167 N

i. तल दिइएका आधारभूत एकाई समूहको कुन अर्न्तसम्बन्धले जुल जनाउँछ ?

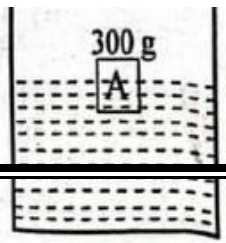

Yn Poudel 9848024521

(i) kgm^2s^{-2} (ii) kgm^2s^{-1} (iii) $kgm^{-2}s^{-2}$ (iv) $kgm^{-2}s^2$

j. चित्रमा दिइएको वस्तुमा पानीले लगाउने उर्ध्वचाप कति हुन्छ ?

(i) 0.03 N (ii) 0.3 N (iii) 3 N (iv) 30 N

खण्ड 'ख' (Section 'B')

2. तलका प्रश्नहरूको अति छोटो उत्तर लेख्नुहोस् । **(9×1=9)**

a. नेटिजनसिपको परिभाषा दिनुहोस् ।

इन्टरनेटमा व्यस्त रहने र सक्रिय रुपमा प्रयोग गर्ने नेटिजनको नागरिकतालाई नेटिजनसिप भनिन्छ ।

b. ब्लड प्रेसरको परिभाषा दिनुहोस् ।

रगतले धमनीको भित्तामा दिने चापलाई ब्लड प्रेसर भनिन्छ ।

c. एक सिङ्गे गैंडाको संरक्षणका लागि मुख्य रूपमा के गर्नुपर्ला ?

एक सिЁ गैंडाको संरक्षणका लागि मुख्य रूपमा प्राकृतिक वासस्थानको संरक्षण गर्नुपर्ला ।

d. दिइएको रासायनिक प्रतिक्रियामा प्रयोग भएको उत्प्रेरकको प्रकार लेख्नुहोस् ।

$$2KClO_3 \xrightarrow{MnO_2} 2KCl + 3O_2$$

दिइएको रासायनिक प्रतिक्रियामा प्रयोग भएको उत्प्रेरक सकारात्मक उत्प्रेरक हो ।

e. भिजाइएको रातो लिट्मस पेपरलाई एमोनिया ग्याँस भएको जारमा राखियो भने निलो हुन्छ, किन ?

एमोनियामा क्षारीय गुण हुने भएकोले भिजाइएको रातो लिट्मस पेपरलाई एमोनिया ग्याँस भएको जारमा राखियो भने निलो हुन्छ ।

f. खाद्य परिरक्षीतको प्रयोग किन गरिन्छ ?

खानालाई बिग्रन वा सड्नबाट जोगाउन, अफ सिजनमा खाना प्रयोग गर्न, खानालाई लामो समयसम्म राख्न खाद्य परिरक्षीतको प्रयोग किन गरिन्छ ।

g. बेलनाकार शरीर भएको र नेफ्रिडियाबाट निष्काशन गर्ने सजीवलाई वर्गीकरणको कुन फाइलममा राख्न सकिन्छ ?

बेलनाकार शरीर भएको र नेफ्रिडियाबाट निष्काशन गर्ने सजीवलाई वर्गीकरणको एनिलिडा फाइलममा राख्न सकिन्छ ।

h. चित्रमा देखाइएको कुन माध्यममा पूर्ण आन्तरिक परावर्तन हुनु अघि चरम कोण बन्छ ?

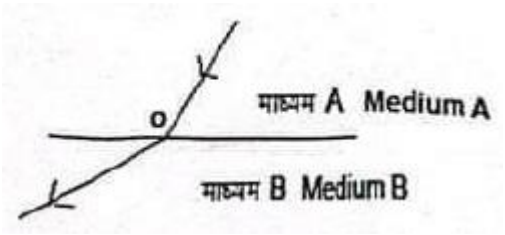

चित्रमा देखाइएको माध्यम A मा पूर्ण आन्तरिक परावर्तन हुनु अघि चरम कोण बन्छ ।

i. यदि एउटा मान्छेले -2.5 D सामर्थ्य भएको लेन्स राखिएको चस्मा प्रयोग गरेको छ भने, उक्त मानिसको आँखामा भएको समस्या के होला ?

उक्त मानिसको आँखामा भएको समस्या अदूर दृष्टि हो ।

खण्ड 'ग' (Section 'C')

YN Poudel 9848024521

तलका प्रश्नहरूको छोटो उत्तर लेख्नुहोस् । **(14×2=28)**

3. रानी मौरीको कुनै दुई कार्यहरू लेख्नुहोस्

रानी मौरीका कुनै दुई कार्यहरू यसप्रकार छन् ।

i. अण्डा दिन्छ ।

ii. फेरोमोन नामक सुगन्धित पदार्थ उत्पादन गर्छ जसले घारका सदस्यहरूलाई पहिचान गर्न मद्दत गर्दछ ।

4. जलवायु परिवर्तनका कुनै दुईओटा प्राकृतिक प्रक्रिया उल्लेख गर्नुहोस् ।

जलवायु परिवर्तनका कुनै दुई प्राकृतिक प्रक्रियाहरू यस प्रकार छन् ।

i. सौर्य गतिविधिहरू

ii. ज्वालामुखी विस्फोट

5. एक जना विद्याथीले घिर्नीको सङ्ख्यामा परिवर्तन गर्दा बलमा कस्तो परिवर्तन आउँछ भन्ने कुरा परीक्षण गर्न खोजे । यस प्रयोगमा घिर्नीको सङ्ख्या, वस्तुको तौल, उचाल्न लाग्ने बल, घिर्नीमा लाग्ने घर्षण बल तथा घिर्नीको किसिम मध्येबाट एउटा नियन्त्रित चर र एउटा आश्रित चरको पहिचान गर्नुहोस् ।

नियन्त्रित चर: घिनीमा उत्पादन हुने घर्षण, घिनीको प्रकारहरू, वस्तुको भार, घिनीको संख्या, इत्यादि ।

आश्रित चर : बल

6. मेन्डलले आफ्नो प्रयोगका लागि तोरीको बिरुवालाई किन रोजेनन् ? कुनै दुईओटा बुँदाहरू उल्लेख गर्नुहोस् ।

मेन्डलले आफ्नो प्रयोगका लागि तोरीको बिरुवालाई छनोट जगर्नुका कारणहरू यसप्रकार छन् ।

i. तोरीमा खुल्ला फूलहरू हुन्छन् जसमा गुणको शुद्धता जाँच गर्न सकिँदैन ।

ii. तोरीको बोटमा केराउको बोटमा जस्तै सजिलै छुट्याउन सकिने विपरित गुणहरू हुँदैनन् ।

7. DC को आवृति कति हुन्छ, किन ?

DC को आवृति शून्य हुन्छ । किनभने त्यहाँ विद्युत प्रवाहको दिशा र परिमाणमा कुनै परिवर्तन हुँदैन ।

8. मानौँ तपाईंले एउटा चारपाङ्ग्रेको ब्रेकिङ प्रणालीका लागि तथा एउटा डुबिरहेको पनडुब्बीलाई सतहमा ल्याउनका लागि हावालाई प्रयोग गर्नुपर्ने छ । तपाईंले उक्त कार्य गर्नका लागि हावाको चापमा के परिवर्तन गर्नुहुन्छ ?

चार पाङ्ग्रे सवारी साधनको ब्रेकिङ सिस्टममा कम्प्रेसरमा हावा कम्प्रेस गरिन्छ । पनडुब्बीको ब्लास्ट ट्याङ्कीमा हावालाई सतहमा ल्याउन कम्प्रेस गरिन्छ ।

9. ताराहरूको जन्म र मृत्यु दुवैका लागि गुरुत्वाकर्षण बलको महत्त्व निकै बढी हुन्छ ।" यस भनाइलाई पुष्टि गर्नुहोस ।

ताराहरूको उत्पत्तिको लागि गुरुत्वाकर्षणले नेबुलामा ताराहरूबीचको पदार्थलाई आफुतिर तान्छ भने ताराहरूको मृत्युको लागि गुरुत्वाकर्षणले ताराहरूबिचको सन्तुलन तोड्छ ।

10. एक जना विद्याथीले क्याल्सियम कार्बोनेटको टुक्राहरूको सट्टा त्यसका धुलोको प्रयोग गरेर प्रयोगशालामा कार्बन डाइअक्साइड ग्याँस तयार गरेका छन् ।

a. उपरोक्त रासायनिक प्रतिक्रियाका लागि सन्तुलित सूत्र समीकरण लेख्नुहोस ।

$CaCO_3 + 2HCl \rightarrow CaCl_2 + H_2O + CO_2$

b. तिनले मार्बलको टुक्राको सट्टा त्यसको धुलो किन प्रयोग गरे ?

YN Poudel 9848024521

सतहको क्षेत्रफल बढ्दा रासायनिक प्रतिक्रियाको दर बढ्दै जाँदा रासायनिक प्रतिक्रियाको दर बढाउने भएकोले मार्बलको टुक्राको सट्टा धुलो प्रयोग गरे ।

11. एउटा सुनको औंठी खेतमा हरायो । उक्त औंठी दुई महिनापछि भेट्दा त्यसको तौलमा कुनै परिवर्तन देखिएन, किन ?

सुनमा खिया लाग्दैन त्यसैले यसको भार बढ्दैन । सुनलाई कुनै पनि अन्य पदार्थले असर गर्दैन किनभने यो कम प्रतिक्रियाशील धातु हो । त्यसैले सुनको तौलमा कुनै परिवर्तन देखिएन ।

12. सिमेन्ट, काँच, सेरामिक्स, प्लास्टिक, फाइबर, रासायनिक मल, साबुन, किटनाशक रसायन, डिटरजेन्ट आदि रासायनिक प्रदूषकहरू हुन् । यिनीहरूमध्ये सजीवहरूमा उत्परिवर्तन गराउन सक्ने प्रदूषकको असरलाई न्युनीकरण गर्ने कुनै दुई उपायहरू लेख्नुहोस् ।

सजीवहरूमा उत्परिवर्तन गराउन सक्ने प्रदूषकको असरलाई न्युनीकरण गर्ने कुनै दुई उपायहरू यसप्रकार छन् ।

i. अर्गानिक कीटनाशकलाई प्रवर्द्धन गर्ने ।

ii. उचित सावधानी अपनाएर कीटनाशक प्रयोग गर्ने ।

13. मेरुदण्ड नभएका तर हाड भएका जनावरहरूले वर्गीकरणलाई जीवहरूको क्रमविकाससँग कसरी जोड्छन् । कुनै दुईओटा बुँदाहरू लेख्नुहोस् ।

मेरुदण्ड नभएका तर हाड भएका जनावरहरूले वर्गीकरणलाई जीवहरूको क्रमविकाससँग निम्न तर्कले जोड्न सकिन्छ ।

i. यस्ता कर्डेट्समा कडा नोटोकर्ड हुन्छ ।

ii. यस्ता जनावरहरूका केही विशेषताहरू माछा जस्तै हुन्छन् ।

14. मानौँ तपाईंलाई उच्च ज्वरो आएको छ र तपाईंको नजिकै कुनै स्वास्थ्य केन्द्र छैन । तपाईले ज्वरो कम गर्नका लागि के प्रयोग गर्नु हुन्छ ? त्यसको कारण पनि लेख्नुहोस् ।

पानी वा भिजेको रुमालको प्रयोग गरिन्छ किनभने पानीको उच्च विशिष्ट ताप धारण क्षमताको कारणले शरीरबाट बढी ताप सोस्छ र शरीरको तापक्रम घटाउँछ ।

15. काठमाडौं उपत्यकामा रहेका धातुजन्य प्राकृतिक सम्पदाहरूको टलक, दिन प्रतिदिन कम हुँदै गइरहेको छ । यसको प्रमुख कारण के हो ? आफ्नो उत्तरको समर्थनमा एउटा रासायनिक समीकरण पनि लेख्नुहोस् ।

एसिड वर्षाको कारण धातुजन्य प्राकृतिक सम्पदाहरूको टलक दिनप्रतिदिन कम हुँदै गएको हो ।

धातु + एसिड → नुन + H_2

$Fe + H_2SO_4 \rightarrow FeSO_4 + H_2$

16. सँगैको तालिकामा अल्कोहलको होमोलोगस श्रृङ्खला तालिका दिइएको छ । जहाँ क्र. सं. 2 मा, वास्तविक यौगिकको सट्टा X लेखिएको छ ।

क्र. सं.	होमोलोगस श्रृङ्खला
1.	CH_3OH
2.	X
3.	$CH_3CH_2CH_2OH$

i. X को अणुसूत्र लेख्नुहोस ।

X को अणुसूत्र CH_3CH_2OH हो ।

ii. X मा रहेको यौगिकबाट एउटा H र एउटा - OH छुट्याउँदा बन्ने यौगिकको संरचनासूत्र लेख्नुहोस ।

YN Poudel 9848024521

X मा रहेको यौगिकबाट एउटा H र एउटा -OH छुटयाउँदा बन्ने यौगिकको संरचनासूत्र यसप्रकार छ ।

खण्ड 'घ' (Section 'D')

तलका प्रश्नहरूको लामो उत्तर लेख्नुहोस् । **(7×4=28)**

17. मेन्डेलिभको पेरियोडिक तालिकाको तुलनामा आधुनिक पेरियोडिक तालिकाका राम्रा पक्षहरू के के हुन् ? कुनै चारओटा बुँदाहरू उल्लेख गर्नुहोस् ।

मेन्डेलिभको पेरियोडिक तालिकाको तुलनामा आधुनिक पेरियोडिक तालिकाका राम्रा पक्षहरू निम्न छन् ।

i. आधुनिक पेरियोडिक तालिका परमाणविक संख्यामा आधारित छ ।

ii. तालिकालाई 4 ब्लकमा विभाजन गरिएको छ ।

iii. समान तत्वहरू एउटै समूहमा राखिएको छ ।

iv. धातु, अधातु र मेटालोइडहरू निश्चित स्थानमा राखिएको छ ।

18. डिजिटल सिग्नलको प्रसारण तथा यसको प्रयोगको व्याख्या गर्नुहोस् ।

डिजिटल सिग्नलको प्रसारण हुने तरिका यसप्रकार छ ।

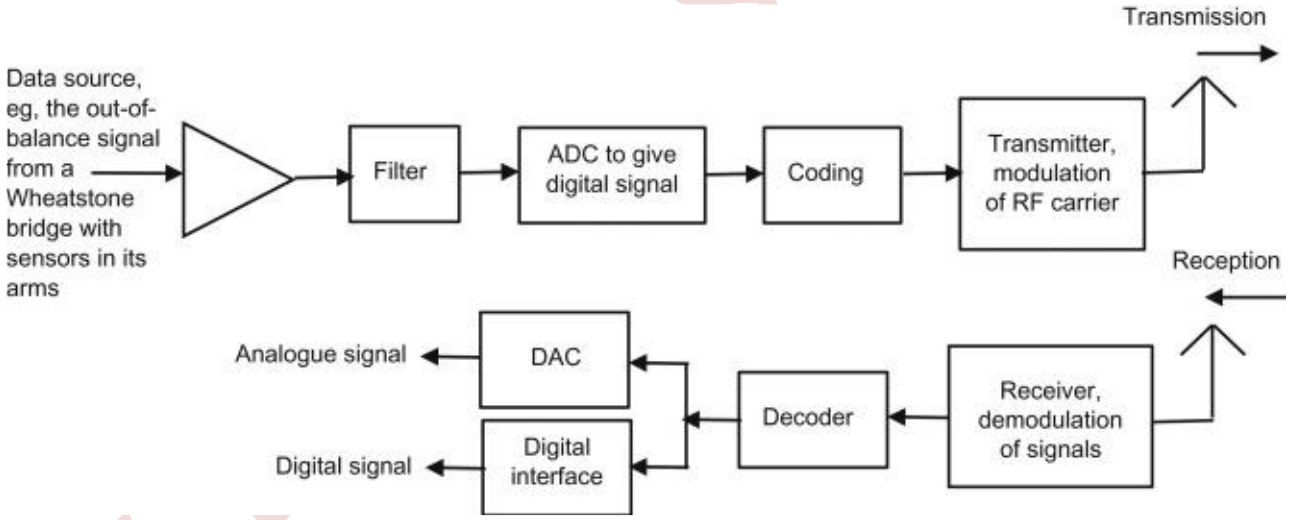

डिजिटल सिग्नलको प्रयोग निम्न कार्यका लागि गर्न सकिन्छ ।

i. ठुलो डाटालाई स्थायी रूपमा भण्डारण गर्न सकिन्छ ।

ii. परिमाण र गुणस्तरमा परिवर्तन नगरी डाटा एक उपकरणबाट अर्कोमा स्थानान्तरण गर्न सकिन्छ ।

iii. यो दूरसंचार, चिकित्सा इमेजिङ प्रविधिहरू जस्तै MRI, CT स्क्यान, आदि मा प्रयोग गरिन्छ ।

19. कक्षाको अन्तिम बेन्चमा बसिरहेको विद्यार्थीले कालोपाटीमा लेखिएका अक्षरहरू स्पष्ट पढ्न नसक्ने तर पाठ्यपुस्तक सजिलैसँग पढ्न सक्छ । उक्त विद्यार्थीको दृष्टिको कमजोरी तथा त्यसका दुईओटा कारणहरू लेख्दै उक्त कमजोरीलाई हटाउने उपायको किरण रेखाचित्र खिच्नुहोस् ।

उक्त विद्यार्थीको दृष्टिको कमजोरी अदूरदृष्टि हो ।

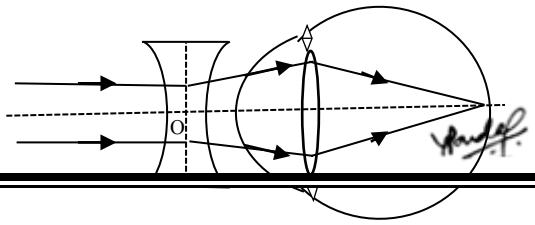

अदूरदृष्टिका कारणहरू यसप्रकार छन् ।

i. आँखाको डल्लो लाम्चो भई लेन्सबाट रेटिनाको दुरी बढ्नु ।

ii. लेन्सको सिलियरी मांसपेसी पर्याप्त तन्कन नसक्नु र लेन्स बाक्लो हुनु ।

iii. लेन्सको केन्द्रीकरण दुरी छोटो हुनु ।

20. दिइएको रगतको चित्र अध्ययन गर्नुहोस् ।

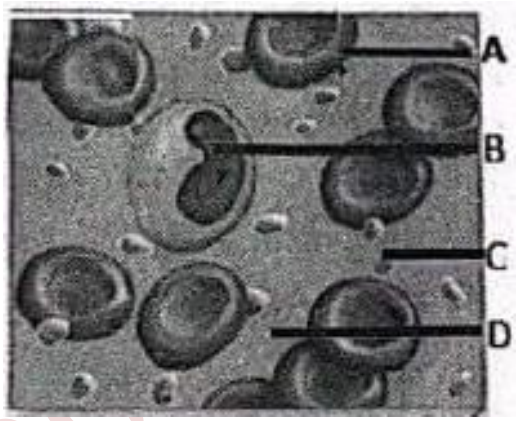

i. तीमध्ये कुन प्रकारको रगतले 55% भाग ओगट्दछ ?

तीमध्ये D (प्लाज्मा) ले 55% भाग ओगट्दछ ।

ii. तीमध्ये कुन ल्युकेमियासँग सम्बन्धित छ ?

तीमध्ये B (WBC) ल्युकेमियासँग सम्बन्धित छ ।

iii. तीमध्ये A को सङ्ख्या औसतभन्दा तल झर्दा हुने असामान्य अवस्थालाई के भनिन्छ ?

तीमध्ये A को सङ्ख्या औसतभन्दा तल झर्दा हुने असामान्य अवस्थालाई रक्तअल्पता भनिन्छ ।

iv. तीमध्ये कुनले आफ्नो काम गर्दा रेसाजस्तो संरचना बनाउँछ ?

तीमध्ये C (प्लेटलेट्स) ले आफ्नो काम गर्दा रेसाजस्तो संरचना बनाउँछ ।

21. एउटा विद्युत सामग्री उत्पादन गर्ने कम्पनीले ट्रान्सफर्मरको माग बजारमा देख्यो ।

i. त्यस कम्पनीले प्राइमरी फन्का 200 र सेकेन्डरी फन्का 100 हुने गरी ट्रान्सफर्मर बनाउँदा कस्तो प्रकारको ट्रान्सफर्मर बन्छ ?

स्टेप डाउन ट्रान्सफर्मर बन्छ ।

ii. यदि उक्त कम्पनीले बनाएको ट्रान्सफर्मरमा प्राइमरी फन्कामा 50V DC पठाउँदा सेकेन्डरी फन्कामा कति भोल्ट विद्युत बग्छ ?

यदि उक्त कम्पनीले बनाएको ट्रान्सफर्मरमा प्राइमरी फन्कामा 50V DC पठाउँदा सेकेन्डरी फन्कामा विद्युत बग्दैन ।

iii. उक्त ट्रान्सफर्मरहरूमा इनपुट र आउटपुट इनर्जीबीच के सम्बन्ध छ ?

इनपुट इनर्जी : आउटपुट इनर्जी = 2:1

iv. दैनिक जीवनमा माथिका 2 नं. मा दिइएको ट्रान्सफर्मरको उपयोगिता के हुन्छ ?

स्टेप डाउन ट्रान्सफर्मरलाई भोल्टेज घटाउन प्रयोग गरिन्छ ।

22. चित्रमा फरक फरक दुई किसिमका कोष विभाजनका चित्रहरू देखाइएका छन् ।

YN Poudel 9848

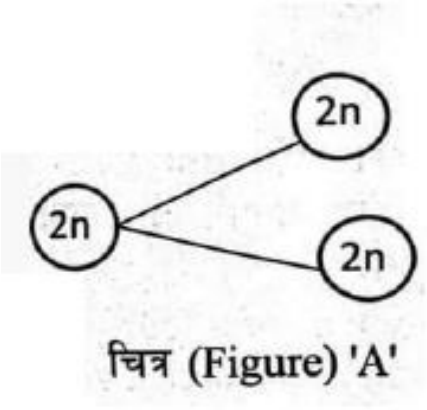

चित्र (Figure) 'A'

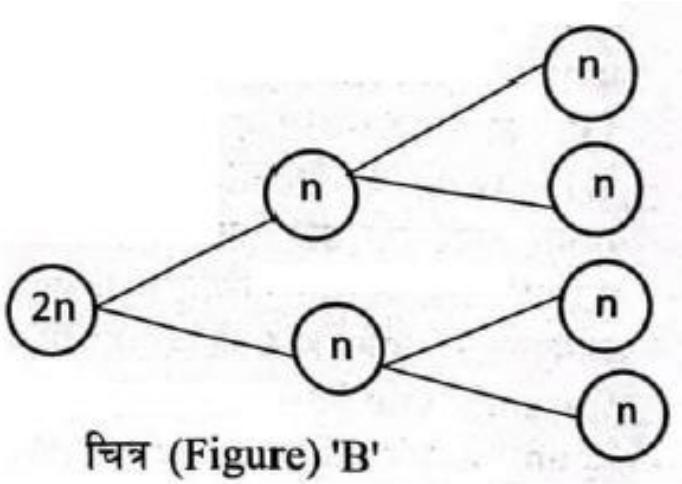

चित्र (Figure) 'B'

i. तीमध्ये कुनले ग्यामेटको निर्माण गर्न सक्छ ?

तीमध्ये 'B' ले ग्यामेटको निर्माण गर्न सक्छ ।

ii. तीमध्ये कुनले माउकोषको जस्तै गुण भएका कोषहरू बनाउँछन् ?

तीमध्ये 'A' ले माउकोषको जस्तै गुण भएका कोषहरू बनाउँछन् ।

iii. चित्र 'A' को कुनै एक महत्त्व लेख्नुहोस् ।

1. माइटोसिसले शारीरिक वृद्धिमा मुख्य भूमिका खेल्छ ।
2. यसले घाइते क्षेत्रहरूमा कोशिकाहरू पुनः उत्पन्न गर्न मद्दत गर्दछ ।
3. यसले अमैथुनिक प्रजननमा मद्दत गर्दछ ।
4. यसले आनुवंशिक स्थिरता कायम राख्छ ।

iv. तीमध्ये कुनले मैथुनिक प्रजननमा क्रोमोजोमको सङ्ख्या माउकोषमा जतिकै बनाउन मद्दत गर्दछ ?

तीमध्ये 'B' ले मैथुनिक प्रजननमा क्रोमोजोमको सङ्ख्या माउकोषमा जतिकै बनाउन मद्दत गर्दछ ।

23. सँगैको तालिकामा तीनओटा आकाशीय पिण्डहरूको गुरुत्वप्रवेग आकाशीय पिण्डहरू दिइएका छन् ।

आकाशीय पिण्डहरू	गुरुत्वप्रवेग
A	**9.8 m/s^2**
B	**25 m/s^2**
C	**1.67 m/s^2**

i. ग्रह B को सतहतिर स्वतन्त्र रुपमा खसिरहेको वस्तुले पाँचौं सेकेन्डमा लिएको गति गणना गर्नुहोस् ।

Solution: $v = u + at$

$= 0 + 25 \times 5$

$= 125$ m/s

ii. यदि कुनै व्यक्तिले पृथ्वीको सतहमा 50 kg पिण्ड उचाल्न सक्छ भने त्यस व्यक्तिले आकाशीय पिण्ड C को सतहमा कति पिण्ड उचाल्न सक्छ ?

Solution: पृथ्वीमा उचाल्न सकने पिण्ड (m_e) = 50 kg

गुरुत्व प्रवेग (g_e) = 9.8 m/s^2

गुरुत्व प्रवेग (g_c) = 1.67 m/s^2

पिण्ड C मा उचाल्न सकने पिण्ड (m_c) = ?

पृथ्वीमा उचाल्न प्रकाश तौल .= पिण्ड C मा उचाल्न प्रकाश तौल

or, $m_e \times g_e = m_c \times g_c$

or, $50 \times 9.8 = m_c \times 1.67$

or, $m_c = \frac{490}{1.67}$

$\therefore m_c = 293.4$ kg

व्यक्तिले पिण्ड C मा 293.4 kg किलो उचाल्न सक्छ ।

iii. आकाशीय पिण्ड C को सतहमा किन ठुला ठुला खाल्डाहरू पाइन्छन ?

चन्द्रमामा वायुमण्डल नभएकाले उल्का पिण्डहरू सिधै चन्द्रमाको सतहमा ठोक्किएर ठूला ठूला खाल्डाहरू बनाउँछन् ।

iv. यद्यपि वृहस्पतिको पिण्ड पृथ्वीको पिण्डभन्दा 319 गुणा बढी छ, तर यसको गुरुत्वप्रवेग त्यही अनुपातमा बढेको पाईंदैन, किन ?

गुरुत्व प्रवेग अर्धब्यासको वर्गसँग व्युत्क्रमानुपातिक भएकोले, बृहस्पतिको पिण्ड पृथ्वीको पिण्डको 319 गुणा भए पनि, बृहस्पतिको अर्धब्यास पृथ्वीको अर्धब्यासको 11 गुणा छ । सूत्रानुसार गुरुत्व प्रवेग $g = \frac{GM}{R^2}$ हुन्छ । यसरी पिण्ड र अर्धब्यास दुबैको असर पर्ने हुँदा बृहस्पतिको गुरुत्व प्रवेग पृथ्वीको भन्दा धेरै बढेको पाईंदैन ।

SEE परीक्षाको सफलताको शुभकामना !!!

Y. Poudel 9848024521